자동차 운전자 과목 1 시험문제
(자동차 유형)

机动车驾驶人科目一考试题库

（汽车类）

韩语 KOREAN

公安部交通管理局

공안부 교통관리국

乐驾中国CHINA DRIVE 版权所有

운전면허시험 요강

공안교통관리부처가 관리하는 본 시험은 과목 1, 과목 2, 과목 3 총 세 단계로 나뉘어 순서대로 진행된다. 전 단계 과목을 합격해야만 다음 과목의 시험을 볼 수 있고, 전 단계 시험에 불합격했을 경우 계속 그 과목을 본다.

차륜 차량(M), 무궤도 전차(N), 전차(P)의 운전 면허 교육과 시험 요강은 각 성에서 지방의 특성과 필요에 따라 스스로 제정하고, 교통운수부와 공안부에 보고해 기록해야 한다.

1 단계 (과목 1) **도로교통안전법률, 법규와 관련 지식 시험 요강**

시험항목	시험내용	시험 요점	시험 목표
1.도로교통안전법률, 법규 및 규정	중화인민공화국 도로교통안전법 및 실시조례	라이트, 경적 사용 차선 구획선 있는 도로 통행 차선 구획선 없는 도로 통행 교차로 통행 차선 변경 차량 속도 제한 뒤따르기와 추월제한 교차규정 철로 도로 및 나루터 통행 서행 및 정체 구간 교체 통행 침수 도로, 침수 다리 통행 보행자와 비차량에 대한 양보 U 턴과 후진	각종 도로 통행에 대한 숙지 면허증 신청, 수령 및 사용에 관한 규정 숙지 관련 권리, 의무와 법률적 책임 숙지 기타 법률, 법규 및 규정의 도로교통안전 관련 주요 내용 파악
	형법	교통사고죄 위험운전죄	
	도로교통안전 위법행위 처리 절차 규정	차량 압류 상황 운전면허증 압수 상황	
	도로교통사고 처리 절차 규정	사고현장처리 고속도로사고현장처리 현장 신고와 처리 자발적인 협상을 통한 사고 처리 사고현장 강제 철수	
	운전면허 신청 및 사용 규정	운전면허 허가 운전면허 종류 및 운전허용차종과 유효기간 운전면허증 신청 조건 첫 운전면허증 신청 차종 운전자 시험 내용과 합격 기준 운전자 시험 요구 유효기간 만료 갱신 이전 갱신 변경 갱신 운전면허증 유실 재발급 벌점제도 위반 벌점 및 시험 연습운전면허기간 운전면허 심사 운전자 신체검사 운전면허증 취소	

乐驾中国CHINA DRIVE 版权所有

		위법 처벌	
	자동차등록 규정	자동차 등록, 변경, 이전, 저당, 등록 취소 자동차등록증 분실, 멸실 및 훼손 차량번호판, 운행증 분실, 멸실 및 훼손 임시운행 번호판 차량 검사	
2. 자치법규	지방자치법규에 따른 주요 내용		지방자치법규의 주요 내용 숙지
3.교통신호	도로교통신호등	적색등 녹색등 황색등 차도신호등 화살표 신호등 황색 깜박이 경고 신호등 도로와 철로 교차로 신호등	각종 도로교통신호의 종류 식별 및 그 역할 숙지
	도로교통표지	경고표지 금지표지 지시표지 알림표지 관광지표지	
	도로교통표시선	지시표시선 금지표시선 경고표시선	
	교통경찰관 수신호	정지신호 직진신호 좌회전신호 좌회전 대기신호 우회전신호 차선변경신호 감속서행신호 길가 정차 신호	
4.안전하고 문화적인 운전 주행 기초 상식	운전행위	운전자 운전행위 요구 운전 차량에 대한 운전자의 안전 책임 특수차량에 대한 양보 도로보수작업 차량에 대한 양보 자동차 정차 고속도로 안전 주행 고속도로 고장차 처리 고장차 경고표시요구	정확한 운전 행위 요령, 주요 교통안전위법행위 상황 및 법률적 책임에 대한 기본 상식 숙지
	교통안전위법행위	차량운전 금지행위 도로교통안전법 위반에 대한 처벌	

		종류 교통신호위반에 대한 처벌 음주 및 마약 등 약물 복용 후 운전에 대한 처벌 운전면허증 위법 관련 처벌 자동차번호판 위법 관련 처벌 즉결처벌 면허증 부당 취득에 대한 처리 정원초과 및 과적 위법 청산 규정	
5.자동차 운전조작 관련 기본 지식	계기판과 지시등	계기판 안개등 표시등 유압계와 경고등 브레이크 경고등 연료부족 경고등 냉각수온도 경고등 전조등 상하향 표시등 시트벨트 경고등 비상깜박이 방향지시등 기타지시등	자동차 주요 계기판, 지시등 조작, 안전장치에 관한 기본 지식 숙지
	제어장치	핸들 클러치 페달 브레이크 페달 가속 페달 변속 레버 주차 브레이크 제어 장치 시동 스위치 라이트 스위치 와이퍼, 제습, 제빙 장치	
	안전장치	헤드레스트 안전벨트 ABS 장치 에어백	

乐驾中国CHINA DRIVE 版权所有

제 2 단계(과목 2) 장내 운전면허시험 요강

시험 항목	시험 요점	시험 차종	시험 목표
1.장애물이 설치된 T 자 코스	주행 공간과 위치를 정확하게 판단, 저속 후진 혹은 전진해 장애물이 설치된 제한공간 통과	A1、A2、A3、B1、B2、C4、D、E、F	기초 운전 조작 요령 숙지 운전 장치 및 차량 주행 공간과 위치에 대한 정확한 파악을 통해 운전 중 주행 위치, 속도와 노선을 정확하게 제어
2.후진 입고	차량 후진 궤도를 정확하게 판단해 후진으로 입고	C1、C2、C3、C5	
3.경사면 정차와 출발	정차위치를 정확하게 판단해서 정차한 후, 가속 페달과 주차 브레이크, 클러치를 잘 이용해 안정적으로 출발	A1、A2、A3、B1、B2、C1、C2、C3、C4、C5、D、E、F	
4.평행주차	도로 우측 주차위치에 정확하게 정차하기	A1、A2、A3、B1、B2、C1、C2、C3、C5	
5.일방 다리 통과	정확한 핸들링으로 직선 주행 유지	A1、A2、A3、B1、B2、C4、D、E、F	
6.곡선주행	적당한 핸들링을 통한 곡선 주행	A1、A2、A3、B1、B2、C1、C2、C3、C5	
7.굴절 코스	정확한 핸들링으로 안쪽 타이어와 바깥쪽 타이어 차이를 정확하게 판단	A1、A2、A3、B1、B2、C1、C2、C3、C5	
8.폭이 제한된 공간 통과	일정한 주행 속도에서 차체 위치를 정확하게 판단해 폭이 제한된 공간 통과	A1、A2、A3、B1、B2	
9.연속 장애물 통과	운행 중 좌우측 타이어 안쪽 공간의 변화를 정확하게 판단	A1、A2、A3、B1、B2	
10.굴곡도로 주행	주행 중 요철 장애물 통과 시 상하 흔들림 최소화에 대해 주의	A1、A2、A3、B1、B2	
11.좁은길 U 턴	전진 3 번, 후진 2 번 이하로 U 턴 후 우측 정차	A1、A2、A3、B1、B2	
12.고속도로 주행	고속도로 진출입, 적당한 차선 선택,	A1、A2、A3、B1、B2	

시뮬레이션	주행 규정 준수 및 고속도로 긴급 정차		
13.연속 급커브길 주행 시뮬레이션	급커브에서의 감속, 경적 사용, 우측 주행 시뮬레이션	A1、A2、A3、B1、B2	
14.터널 주행 시뮬레이션	환경광 변화에 적응하기 위해 터널 진입 전 감속, 점등, 경적을 적절히 조정	A1、A2、A3、B1、B2	
15.우천(안개)시 주행 시뮬레이션	우천 혹은 안개시 감속 주행, 적절한 와이퍼 속도 조절, 라이트 사용 시뮬레이션	A1、A2、A3、B1、B2	
16.미끄로운 도로 주행 시뮬레이션	미끄러운 도로에서의 저속기어 등속 주행 시뮬레이션	A1、A2、A3、B1、B2	
17.긴급상황 처리	긴급상황에서의 제동, 정차, 비상깜박이 점등, 경고표시 설치, 탑승자 철수 등에 대한 시뮬레이션	A1、A2、A3、B1、B2	
18.성급 공안기관 교통관리부문이 첨가한 시험 내용	성급 공안기관 교통관리부분이 현지 상황에 따라 차륜차량, 무궤도전차, 전차에 관한 시험 내용 첨가	A1、A2、A3、B1、B2、C1、C2、C3、C5、M、N、P	

乐驾中国CHINA DRIVE 版权所有

3 단계 (과목 3) 도로주행기능 및 문화적인 안전운전상식

시험 요강

도로주행기능

시험항목	시험요점	시험차종	시험목표
1.타기 전 준비	탑승 전 차량 외관과 주변환경에 대한 관찰과 안전 확인	A1、A2、A3、B1、B2、C1、C2、C3、C5	각종 도로 및 야간 운전에 대한 숙지와 자발적인 교통법규 준수, 교통상황에 대한 처리 능력 및 합리적인 차량 조작을 통해 안전하고, 문화적인 운전 습관 배양
2.출발	출발전 차 내 시설을 조정 검사하고, 측면과 후방의 교통상황 확인 후 출발	A1、A2、A3、B1、B2、C1、C2、C3、C5	
3.직선 주행	도로 상황에 맞추어 적절하게 속도를 조절하고, 정확한 기어를 사용해 직선 주행 및 적절한 차간 거리 유지	A1、A2、A3、B1、B2、C1、C2、C3、C5	
4.변속기어 조작	도로교통과 속도에 따라 적시에 기어를 변환하여 순조롭게 주행	A1、A2、A3、B1、B2、C1、C2、C3、C5	
5.차선 변경	올바른 방향지시등 사용과 후방 및 측면 교통상황 관찰을 통해 안전 거리와 주행 속도를 유지하며 적당한 차선 변경 시기 선택	A1、A2、A3、B1、B2、C1、C2、C3、C5	
6.길가 정차	올바른 방향지시등 사용과 후방 및 우측 교통상황 관찰한 후 감속하여 우측 정차	A1、A2、A3、B1、B2、C1、C2、C3、C5	
7.교차로 직진통과	감속 혹은 정차하여 주변 교통상황을 잘 살핀 후 안전하게 교차로에서 직진	A1、A2、A3、B1、B2、C1、C2、C3、C5	
8.교차로 좌회전	감속 혹은 정차하여 주변 교통상황을 잘 살핀 후 정확한 방향지시등을 사용해 안전하게 교차로에서 좌회전 함	A1、A2、A3、B1、B2、C1、C2、C3、C5	
9.교차로 우회전	감속 혹은 정차하여 주변 교통상황을 잘 살핀 후 정확한 방향지시등을 사용해 안전하게 교차로에서 우회전 함	A1、A2、A3、B1、B2、C1、C2、C3、C5	
10.횡단보도 통과	미리 감속해 양쪽 교통상황이 안전하다고 확인 되면 속도를 적절히 조절하며 통과하고, 보행자가 있을 경우 정차해 양보해야 함	A1、A2、A3、B1、B2、C1、C2、C3、C5	
11.학교지역 통과	미리 감속해 상황을 보고 양보하면서 안전하다고 생각되면 통과하고, 학생들이 길을 건널 때는 정차해 양보해야 함	A1、A2、A3、B1、B2、C1、C2、C3、C5	
12.버스정류장 통과	미리 감속해 버스의 정차 및 출발과 승객들의 승하차 상황을 관찰하고, 동방향 버스 전방 혹은 맞은편 방향 버스 후방에 길을 건너는 보행자가	A1、A2、A3、B1、B2、C1、C2、C3、C5	

	있는지를 잘 살펴야 함		
13.교차 운행	교차 지점을 정확하게 판단해 상대편 차량과의 안전 거리를 유지	A1、A2、A3、B1、B2、C1、C2、C3、C5	
14.추월	추월할 차량과의 안전 거리를 유지하고, 좌측 교통상황을 살펴 적절한 시기에 올바른 방향지시등을 켜고, 추월할 차량 좌측으로 추월한다. 추월한 후, 추월한 차량의 정상 주행에 영향을 주지 않으면서 원래 차선으로 복귀	A1、A2、A3、B1、B2、C1、C2、C3、C5	
15.U 턴	감속해 교통상황을 살피고, 정확한 U턴 지점과 시기를 선택해 U턴 신호가 켜지면 U턴 함 U턴 시 기타 차량과 보행자의 정상적인 통행에 방해야 되어서는 안됨	A1、A2、A3、B1、B2、C1、C2、C3、C5	
16.야간주행	야간에는 각종 조명과 도로 상황에 따라 라이트를 정확하게 사용해야 함	A1、A2、A3、B1、B2、C1、C2、C3、C5	
17.성급 공안기간 교통관리부처가 정한 시험 내용	대형버스, 견인차, 도시버스, 중형버스, 대형화물차, 소형차, 소형오토, 저속트럭과 장애인전용 소형오토차량을 제외한 기타 운전 허가 면허 시험 내용	C4、D、E、F、M、N、P	
18.성급 공안기관 교통관리부처가 첨가한 시험 내용	대형버스, 견인차, 도시버스, 중형버스, 대형화물차의 산간지역, 터널 제방도로 등 복잡한 도로 주행 시험 내용	A1、A2、A3、B1、B2	

문화적이고 안전한 운전 상식

시험 항목	시험내용	시험 요점	시험 목표
1.위법행위에 대한 종합적 판단과 사례분석	전형적인 사고 사례	도로교통사고 원인 분석 전형적인 사고 경험 교훈	각종 전형적인 사고 사례 분석을 통한 교훈 습득 및 상용 위법행위와 비문화적인 행동에 대한 이해
	위법행위	위법행위와 비문화적인 행위 분석	
2.안전주행상식	안전주행	출차 전 검사 출발 전 조정 안전한 출발 안전한 차량대열 합류 안전한 주행 거리 안전한 교차 운행 안전한 추월 및 추월 차량에 대한 양보 안전한 정차 안전한 U턴	안전운전 상식 숙지를 통해 조심 운전 및 안전운전에 대한 의식 강화

乐驾中国CHINA DRIVE 版权所有

		안전한 후진 커브길 안전 주행 교차로 안전 주행 안전한 횡단보도 통과 안전한 학교지역 통과 안전한 거주지역 통과 안전한 버스 정류장 통과 탑승자 보호	
3.운전자 도덕과 문화적인 운전 상식	문화적인 운전	횡단보도 앞 양보 교차시 양보 추월시 양보 특수 차량에 대한 양보 이상 주행 차량에 대한 양보 도로, 교차로 정체 시 양보 보행자에 대한 양보 가축에 대한 양보 비차량에 대한 양보 자주 보는 비문명적 행위 자주 보는 위법행위	문화적인 운전 상식 숙지를 통해 양보 의식 강화
4.상용 교통표지, 표시선과 교통경찰관 수신호	도로교통신호	경고표지 금지표지 지시표지 알림표지 관광지표지 지시표시선 금지표시선 경고표시선 교통경찰관 수신호	도로 주행시 각종 교통도로신호 판별과 준수
5.악천후 및 복잡한 도로에서의 운전 상식	교량 및 터널 통과 안전운전	교량통과 안전운전 양방향 터널 통과 안전운전	악천후와 복잡한 도로에서의 안전 주행 상식을 숙지해 도로 교통상황에 따른 안전 운전 실현
	산간도로 안전운전	산간도로 주행 시 안전운전 산간도로 추월 시 안전운전 산간도로 교차 시 안전운전 산간도로 안전 정차 산간도로 오르막길 안전운전 산간도로 커브길 안전운전	
	야간 안전운전	야간 라이트 사용 야간 노면 식별과 판단 야간 주행, 추월, 추월차에 대한 양보 시 안전운전 야간 교차 운행 시 안전운전 야간 교차로 통과 시 안전운전 야간 오르막, 횡단보도 통과 시 안전운전 야간 회전, 사고 발생 시 안전운전	

	특수도로 및 악천후시 안전운전	우천시 안전운전 빙설도로 안전운전 안개시 안전운전 바람이 많이 불 경우 안전운전 진흙탕, 침수, 시공도로 안전운전	
	고속도로 안전운전	톨게이트 진입 인터체인지 주행 추월차선 주행 진입로 주행 주행 차선 선택 주행 속도 확인 안전거리 안전정차 터널 및 교량 통과 감속차선 주행	
6.긴급상황 대비 상식	긴급상황 통용 대비 상식	긴급상황에서의 대비 원칙 타이어 바람 빠짐, 펑크, 핸들 통제 불가, 브레이크 고장, 엔진 꺼짐, 옆으로 미끄러짐, 충돌, 전복, 화재, 침수에 대한 응급처리	긴급상황에서 임시 처리 방법 및 돌발 긴급상황 대처 기초 상식 숙지
	고속도로 긴급상황 대비	긴급상황 대비 원칙 미끄러움, 안개 시 사고, 가드레일 충돌, 횡풍, 긴급상황 정차에 대한 응급 처리	
7.교통사고 응급처치 및 상용 위험화학물 처리 상식	사고처리	사고처리원칙 사고현장처리 관례	교통사고 발생 후 현장 처리와 부상자 응급처치 상식 및 위험화학물 명칭, 특성에 대한 숙지
	부상자 응급처치	부상자 응급처치에 대한 기본적 요구 기절한 부상자 응급처치 출혈부상자 응급조치 화상 부상자 응급처치 중독 부상자 응급처치 골절 부상자 처치 부상자 지혈 방법	
	상용 위험화학물	상용 위험화학물의 특성 위험화학물 운송 중 특수상황 처리	
8.지방 시험	성급 공안교통관리부문이 실제 상황에 근거해 시험 내용 확정		현지 실제 상황에 따라 정한 안전운전 상식 숙지

乐驾中国CHINA DRIVE 版权所有

科目一考试汽车类题库目录

과목 1 자동차유형 시험문제 목록

1、도로교통안전 법률과 법규 및 규정

道路交通安全法律、法规和规章（332 题）

2、도로교통신호 및 의미

道路交通信号及含义（269 题）

3、안전운행과 문명운전 지식

安全行车、文明驾驶知识（187 题）

4、자동차 전체구조와 주요 안전장치 상식，일상검사와 수리보양 기본지식

机动车总体构造和主要安全装置常识、日常检查和维护基本知识（109 题）

1、도로교통안전 법률과 법규 및 규정

道路交通安全法律、法规和规章（332 题）

1. 운전 중 도로교통안전법 위반은 어떤 행위에 해당하는가?
A:법규위반행위
B:위법행위
C:과실행위
D:규정위반행위
标准答案： B

2. 운전자의 법규위반으로 교통사고를 야기했을 경우, 어떤 법적 책임을 묻는가?
A:형사책임
B:직접적 책임
C:민사책임
D:경제적 책임
标准答案： A

3. 교통사고 후 도주죄로 운전면허가 취소되면 시험에 다시 응시할 수 없는 기간은?
A: 10 년
B: 평생
C: 20 년
D: 5 년
标准答案： B

4. 도로교통안전법률 및 법규 위반으로 인한 사고 유발은 교통위반행위에 속한다.
标准答案： N

5. 11:운전 중 도로주행 규정을 위반한 경우 상응하는 처벌을 받아야 한다.
标准答案： Y

6. 운전면허 미 취득자가 운전을 할 경우 법적 책임을 묻는다.
标准答案： Y

7. 교통법 위반으로 중대교통사고를 저질렀을 경우 그 형사책임을 묻지 않는다.
标准答案： N
8. 교통사고 후 도주한 운전자는 면허가 취소되면 평생 면허증을 다시 취득할 수 없다.
标准答案： Y

9. 도로 주행 중 교통안전법규를 위반한 행위는 위법행위에 속한다.
标准答案： Y

10. 운전 시 소지해야 하는 것은 다음 중 무엇인가?
A:사원증
B:운전면허증
C:신분증
D:직업 자격증
标准答案： B

11. 운전면허 미 취득자의 도로 운전교습 시, 다음 중 바른 것은?
A:교습 차량으로 운전교사가 동승하지 않고 혼자 연습한다.
B:교습 차량으로 운전교사가 함께 동승해 지도한다.
C:교습 차량으로 혼자 연습한다.
D:개인차량으로 운전교사가 함께 동승해 지도한다.
标准答案：B

12. 운전자가 면허증을 처음 발급받은 후 실습기간은?
A:18 개월
B:16 개월
C:6 개월
D:12 개월
标准答案： D

13. 실습 기간 운전자는 차량 후방에 어떤 표시를 부착해야 하나?
A:통일된 디자인의 실습운전 표지
B:차량 간격 주의
C:주의 양보
D:초보 운전 주의
标准答案： A

14. 속임수, 뇌물 등 부정행위로 취득한

乐驾中国CHINA DRIVE 版权所有

면허가 취소되었다. 면허시험을 다시 응시할 수 없는 기간은?
A:5 년
B:3 년
C:1 년
D:평생
标准答案： B

15. 운전자는 면허증에 명시된 차종에 따라 운전해야 한다.
标准答案：Y

16. 도로 주행 차량에 신분증을 소지하지 않은 경우 교통경찰은 법에 따라 차량을 압류할 수 있다.
标准答案： N

17. 도로 운행 중인 차량에 차량검사합격스티커를 부착하지 않은 경우 교통경찰은 법에 따라 차량을 압류할 수 있다.
标准答案： Y

18. 운전면허증 위조, 변조 등 범법 행위에 대해 형사책임을 묻는다.
标准答案： Y

19. 운전자는 연습기간 동안 트레일러를 끌 수 없다.
标准答案： Y

20. 개조한 차량을 운전한 자는 규정에 따른 벌금 외에 어떤 처벌을 받아야 하는가?
A:면허증 임시 압수
B:형사책임
C:10 일 이하 구류
D:면허증 취소
标准答案： D

21. 폐기 신고된 차량을 운전한 자는 규정에 따른 벌금 외에 어떤 처벌을 받아야 하는가?
A:면허철회
B:면허증 몰수
C:차량 상태 강제 회복
D:면허취소
标准答案： D

22. 폐차 신고 기준에 이른 차량을 운전한 운전자는 어떤 처벌을 받을 수 있는가?
A:15 일 이하 구류
B:운전면허취소
C:20 위안 이상 200 위안 이하의 벌금
D:형사책임
标准答案： B

23. 개조차량을 운전한 운전자는 어떤 처벌을 받을 수 있는가?
A:15 일 이하 구류
B:법에 의한 형사 책임
C:200 위안 이상 2000 위안 이하의 벌금
D:운전면허증 취소
标准答案： C

24. 도로 주행 전 차량은 반드시 안전장치에 대한 검사를 해야 한다
标准答案： Y

25. 안전 우려가 있는 차량은 도로 주행을 할 수 없다.
标准答案：Y

26. 개조된 차량이 안전하다고 생각되면 도로 주행을 할 수 있다.
标准答案： N

27. 폐차 신고 기준에 이른 차량은 수리 후 도로 주행을 할 수 있다.
标准答案： N

28. 다음 중 도로 주행 시 반드시 소지해야 하는 증서는?
A:자동차 등록증
B:자동차 보험증서
C:운전 면허증
D:출고 합격증서
标准答案： C

29. 이런 차량의 도로 주행은 어떤 행위에 속하는가?

A:위법행위
B:규정위반행위
C:범죄행위

D:범칙행위
标准答案： A

30. 다음 중 도로 주행 시 차량에 반드시 부착해야 하는 표시는?
A:차량 간격 유지 표시
B:검사 합격 표시
C:제품합격표시
D:위험 알림 표시
标准答案： B

31. 운전자는 다음 어떤 상황에서 차량을 운전할 수 없는가?
A:음주 후
B:차를 마신 후
C:커피를 마신 후
D:우유를 마신 후
标准答案： A

32. 이 차량은 어떤 위법 행위에 해당하는가?

A:역주행
B:비차량도로 점용
C:의도적으로 번호판 가림
D:규정에 따라 번호판 부착하지 않음
标准答案：C

33. 차량은 주행 시 반드시 규정에 따라 번호판을 달아야 한다.
标准答案： Y

34. 이 차량으로 도로를 주행하는 것은 경미한 규정위반행위이다.

标准答案：N

35. 국가가 제한하는 향정신성 약물을 복용하고 단거리 주행을 할 수 있다.
标准答案： N

36. 음주 후 운전 조작에 영향을 주지 않는다면 짧은 거리는 주행할 수 있다.
标准答案： N

37. 공안교통관리부처는 운전자 교통위반 행위에 대해 법적 행정처벌 외에 다음 중 어떤 제도를 실행하는가?
A:벌점제도
B:마일리지 장려 제도
C:강제 폐기 제도
D:위법등기제도
标准答案： A

38. 교통도로 안전 위법행위 벌점 누적 주기는?
A:24 개월
B:6 개월
C:12 개월
D:3 개월
标准答案： C

39. 공안기관교통관리부처는 누산 벌점이 초과된 운전자를 어떻게 처분하는가?
A:법적 형사책임을 묻는다.
B:15 일 이하 구류 처분을 한다.
C:평생 운전을 금지한다.
D:법률과 법규에 따라 교육하고, 시험을 다시 치르도록 한다.
标准答案： D

40. 운전자는 다음 중 어떤 상황일 경우 차량을 운전할 수 없는가?
A:면허증 유효기간이 거의 다 된 경우
B:면허증 분실 혹은 훼손
C:벌점이 6 점일 경우
D:벌점이 10 점일 경우
标准答案： B

41. 운전자는 면허증 분실 후 3 개월 안에는 운전을 할 수 있다.
标准答案： N

42. 운전자는 유효기간이 만료된 면허증을 소지하고 1 년은 운전을 할 수 있다.
标准答案： N

43. 운전자의 면허증이 훼손되면 운전을 해서는 안 된다.

乐驾中国CHINA DRIVE 版权所有

标准答案： Y

44. 누산 벌점이 12 점인 운전자가 교육과 시험을 거부하면 면허증 사용 정지가 공고된다.
标准答案：Y

45. 운전자의 면허증이 법에 의해 압류 혹은 잠시 압류된 상황에서는 운전을 해서는 안 된다.
标准答案： Y

46. 전방 도로의 이 신호등은 무엇을 뜻하는가?

A:교차로 경고
B:통행금지
C:통행허가
D:주의 환기
标准答案： B

47. 전방 도로의 이 신호등은 무엇을 뜻하는가?

A:교차로 경고
B:가속 직진
C:가속 좌회전
D:우회전 금지
标准答案： A

48. 전방 도로의 신호등은 무엇을 뜻하는가?

A:통행금지
B:교차로 경고
C:주의 환기
D:통행 허가
标准答案： D

49. 교통신호에는 신호등, 교통표지판, 표시선과 교통경찰의 지시가 포함된다.
标准答案：Y

50. 교통표지판과 표시선은 교통신호에 속하지 않는다.
标准答案： N

51. 교통신호등은 적색, 녹색, 황색으로 이루어져 있다.
标准答案： Y

52. 도로 교통표시선은 지시, 경고, 금지표시선으로 나뉜다.
标准答案： Y

53. 이런 길에서 차량은 어떻게 지나가는가?

A:경고를 하며 지나간다.
B:차도 중간으로 지나간다
C:차도 양쪽으로 지나간다
D:마음대로 지나간다
标准答案：B

54. 다음과 같은 차선에서는 어떤 차량이 운행할 수 있는가?

A:버스
B:택시
C:공무차량
D:승용차
标准答案：A

55. 운전 중 교차로에서 다음과 같은 상황에는 어떻게 주행해야 하나?

A:정차하고 기다린다.
B:우측으로 붙어 직진한다
C:교통신호라이트를 준수한다.
D:우회전할 수 있다.
标准答案： A

56. 이런 신호등이 있는 교차로에서 차량은 어떻게 주행해야 하는가?

A:정차하고 기다린다
B:좌회전한다.
C:우회전한다
D:직진한다
标准答案：C

57. 이런 상황의 교차로에서는 어떻게 통과하는가?

A:우회전해 가속 통과한다.
B:속도를 높여 직진한다.
C:좌회전해 가속 통과한다.
D:안전을 확인한 후 통과한다.
标准答案： D

58. 적색 차량이 있는 차선은 무엇인가?

A:추월차선
B:비상차선
C:저속차선
D:전용차선
标准答案： A

59. 도로에서 차선을 변경할 때 주의해야 할 것은?
A:다른 차량의 정상 주행에 영향을 줘서는 안된다.
B:방향지시라이트를 켜고 신속하게 좌측으로 바꾼다.
C:재빨리 가속해 좌측 차선으로 진입한다.
D:좌측 차선 진입 시 적절히 감속한다.
标准答案： A

60. 이런 상황에서는 우측 버스 차선을 이용해 추월을 할 수 있다.

标准答案： N

61. 교차로에서 교통신호등과 경찰의 지시가 다를 경우 교통신호등에 따라 주행한다.
标准答案： N

62. 이런 상황에서는 속도를 높여 교차로를 지나간다.

乐驾中国CHINA DRIVE 版权所有

标准答案： N

63. 교차로의 이 위치에서는 가속으로 통과한다.

标准答案： N

64. 주행 차량은 적색 X 표시 및 화살표 모양의 등이 켜져 있는 차선에는 진입할 수 없다.
标准答案： Y

65. 이 구간 최고 시속은 50km 이다.

标准答案： N

66. 적색 차량은 바른 방법으로 차선을 변경했다.

标准答案： N

67. 주행 중 좌회전 차선 변경 시 어떻게 라이트를 사용하는가?
A:하향전조라이트를 미리 켠다.
B:방향지시라이트를 사용하지 않는다
C:우회전 방향 지시라이트를 미리 켠다.
D:좌회전 방향 지시라이트를 미리 켠다.
标准答案： D

68. 도로 주행에서 차도 옆 주차 시 어떻게 라이트를 사용하는가?
A:상,하향 전조등을 번갈아 사용한다.
B:방향지시등을 사용해 알리지 않는다.
C:비상깜박이를 켠다.
D:우회전 방향 지시등을 미리 켠다.
标准答案： D

69. 이런 날씨에서 주행 시 어떻게 라이트를 사용하는가?

A:안개등을 사용한다.
B:상향전조등을 사용한다.
C:라이트를 사용하지 않는다.
D:하향전조등을 사용한다
标准答案： D

70. 이런 날씨에서는 주행 시 어떻게 라이트를 사용하는가?

A:상향전조등을 사용한다
B:안개등을 사용한다
C:우회전 방향지시등을 켠다
D:라이트를 사용하지 않는다
标准答案： B

71. 비오는 날 주행 시 어떻게 라이트를 사용하는가?

A:상향전조등을 사용한다.
B:하향전조등을 사용할 수 없다.
C:상향전조등을 사용할 수 없다.
D:안개등을 사용한다.
标准答案： C

72. 위조, 변조된 차량번호판을 사용했을 때 받게 되는 벌점은?

A:12 점
B:2 점
C:3 점
D:6 점
标准答案： A

73. 이 도로 구간에서는 어떻게 주행해야 하는가?

A:감속하고 경적을 울려 알린다
B:속도를 높이고 경적을 울리며 지나간다
C:커브길 가운데에서 돈다
D:반대편 도로를 점령해 돈다
标准答案： A

74. 도로 주행 시 추월할 때 방향지시등을 사용하지 않을 수 있다.
标准答案： N

75. 도로 주행 시 추월 후 원래 차선으로 돌아올 때 우회전 방향지시등을 켠다.
标准答案： Y

76. 도로 주행 중 U 턴을 할 때 사전에 좌회전 방향지시등을 켠다.
标准答案： Y

77. 도로 주행 중 우측으로 차선을 변경할 때 방향지시등을 사용하지 않을 수 있다.
标准答案： N

78. 황사가 있는 날 주행 시 전조등, 차폭등, 백 라이트를 사용하지 않는다.
标准答案： N

79. 안개 낀 날 주행 시 안개등과 비상깜박이를 켠다.
标准答案： Y

80. 급커브 길 주행 시 상,하향 전조등을 번갈아 사용해야 한다.

标准答案： Y

81. 야간 주행 시 횡단보도를 지날 때는 상,하향 전조등을 번갈아 사용해야 한다.
标准答案： Y

82. 오르막길에서 오르막 꼭대기로 향할 때 속도를 올리고 경적을 울려야 한다.
标准答案： N

83. 아래의 행위 중 200 위안 이상 2000 위안 이하의 벌금과 동시에 운전면허 정지처분을 받게 되는 것은?
A:도로 통행규정 위반
B:규정속도 절반이상 초과
C:교통사고 후 도주
D:운전 면허증 미소지
标准答案： B

84. 다음과 같은 고속도로 주행 시 최고속도는?

A: 시속 90km
B: 시속 120km
C: 시속 110km
D: 시속 100km
标准答案： C

85. 다음과 같은 도로구간을 주행 시 최고속도는?

乐驾中国CHINA DRIVE 版权所有

A: 시속 50km
B: 시속 40km
C: 시속 70km
D: 시속 30km
标准答案： D

86. 다음과 같은 도로에서 주행 시 최고속도는?

A: 시속 50km
B: 시속 70km
C: 시속 40km
D: 시속 30km
标准答案： C

87. 다음과 같은 도시 도로에서 주행 시 최고속도는?

A: 시속 50km
B: 시속 30km
C: 시속 70km
D: 시속 40km
标准答案：A

88. 다음과 같은 도로에서 주행 시 최고속도는?

A: 시속 30km
B: 시속 40km
C: 시속 50km
D: 시속 70km
标准答案：

89. 다음과 같은 커브 길에서 주행 시 최고속도는?

A: 시속 30km
B: 시속 50km
C: 시속 40km
D: 시속 70km
标准答案： A

90. 차량 주행 중에 황사, 우박, 비, 안개, 결빙 등 기상 조건에 대비하여 운전자가 취해야 할 조치는?
A:평상시 속도로 주행
B:등속주행을 유지
C:주행 속도를 낮춤
D:차량 속도를 적당하게 높임
标准答案： D

91. 차량 주행 중 안개, 비, 눈 등으로 인해 가시거리가 50 미터 이내인 경우 최고속도는?
A: 시속 70km
B: 시속 30km
C: 시속 40km
D: 시속 50km
标准答案：B

92. 차량 주행 중 비차량도로에 진입했을 경우 최고속도는?
A: 시속 50km
B: 시속 40km
C: 시속 60km
D: 시속 30km
标准答案： D

93. 차량 주행 중 철로건널목을 통과할 때 최고속도는?
A: 시속 15km
B: 시속 20km
C: 시속 30km
D: 시속 40km
标准答案： C

94. 차량 주행 중 급커브 길을 통과할 때 최고속도는?
A: 시속 50km
B: 시속 30km
C: 시속 20km
D: 시속 40km
标准答案： B

95. 차량 주행 중 좁은 길, 좁은 다리를 통과할 때 최고속도는?
A: 시속 50km
B: 시속 60km
C: 시속 40km
D: 시속 30km
标准答案： D

96. 차량 주행 중 가파른 경사면을 내려가거나 회전, U 턴 할 경우 최고속도는?
A: 시속 60km
B: 시속 30km
C: 시속 50km
D: 시속 40km
标准答案： B

97. 차량 주행 중 빙설 도로주행 시 최고속도는?
A: 시속 20km
B: 시속 30km
C: 시속 40km
D: 시속 50km
标准答案： B

98. 차량 주행 중 진흙탕길주행 시 최고속도는?
A: 시속 15km
B: 시속 30km
C: 시속 40km
D: 시속 20km
标准答案： B

99. 차량이 도로주행 시 최고제한속도 표지판의속도를 초과해서는 안된다.
标准答案： Y

100. 중앙선이 없는 도시 도로 주행 시, 최고속도 50km/h 를 초과해서는 안된다.
标准答案： N

101. 중앙선이 없는 도로 주행 시, 최고속도 70km/h 를 초과해서는 안 된다.
标准答案： N

102. 주행 중인 차량은 다음과 같은 도로에서 최고속도 50km/h 를 초과해서는 안 된다.

标准答案：N

103. 자동차 주행 시 U턴하거나 회전, 가파른 경사면을 내려갈 경우 최고속도 40km/h 를 초과해서는 안된다.
标准答案： N

104. 차량이 좁은 길, 좁은 다리를 통과할 때 최고속도 30km/h 를 초과해서는 안된다.
标准答案： Y

105. 아래의 두 차량이 추돌사고가 일어난 주원인은?

A: 앞차가 브레이크를 밟을 때 백미러를 자주 보지 않음
B: 앞차가 급하게 브레이크를 밟음
C: 뒤차가 앞차와의 안전거리를 유지하지 않음
D: 뒤차가 추월하려고 할 때 앞차와의 거리가 너무 가까움
标准答案： C

106. 주행 중인 차량이 추월할 수 없는 경우는?
A: 앞차가 감속주행하면서 양보할 때
B: 앞차가 좌회전 할 때
C: 앞차가 길가에 정차할 때
D: 앞차가 우회전 할 때
标准答案： B

107. 중앙선이 없는 도로 위에서 뒤차가 추월 신호를 보내왔을 때

乐驾中国CHINA DRIVE 版权所有

올바르게 설명한 것은?
A: 우측으로 감속주행하면서 길을 양보
B: 급속으로 정차한 후 양보
C: 가속주행
D: 원상태를 유지하면서 주행
标准答案： A

108. 아래의 그림 중 추월 시 앞차의 어느 쪽으로추월해야 하는가?

A: 장애물이 없는 쪽
B: 좌우 양측 모두 가능
C: 앞차의 좌측
D: 앞차의 우측
标准答案： C

109. 차량이 동일한 차도에서 주행 시 추월해서는 안 되는 경우는?
A:감속주행하면서 양보할 때
B:정차할 때
C:정상주행할 때
D:추월 하는 중에
标准答案： D

110. 차량이 동일한 차도에서 주행 시 추월해서는 안 되는 경우는?
A:.정상주행할 때
B: 감속주행하면서 양보할 때
C: U턴할 때
D: 정차할 때
标准答案： C

111. 차량이 동일한 차도에서 주행 시 추월해서는 안 되는 차량은?
A: 임무수행중인 경찰 차량
B: 초대형 화물차
C: 대형 버스
D: 도시 버스
标准答案： A

112. 차량이 동일한 차도에서 주행 시 추월해서는 안 되는 차량은?
A: 초대형 화물차
B: 대형 버스
C: 구급차
D: 소형 화물차
标准答案： C

113. 차량이 동일한 차도에서 주행 시 추월해서는 안 되는 차량은?
A: 초대형 화물차
B: 대형 버스
C: 중형 버스
D: 임무수행중인 소방차
标准答案： D

114. 주행 중인 차량이 시가지를 지날 때 추월 할 수 없는 구간은?
A: 주요 거리
B: 일방통행구간
C: 찻길 하나만 있는 경우
D: 교통 유동량이 많은 구간
标准答案： D

115. 주행 중인 차량이 추월할 수 없는 구간은?
A: 고가 도로
B: 횡단보도
C: 도시순환 고속도로
D: 주요 거리
标准答案： B

116. 주행 중인 차량이 추월할 수 없는 구간은?
A: 도시순환 고속도로
B: 교차로
C: 시중심
D: 고가 도로
标准答案： B

117. 주행 중인 차량이 추월할 수 없는 구간은?
A: 산간도로
B: 좁은 다리, 굽은 길
C: 도시내 고속도로
D: 도시 고가 도로
标准答案： B

118. 야간 주행 중인 차량이 추월하려고 할 때 올바른 조명등 사용방법은?
A: 상향전조등 혹은 하향전조등으로 바꾼다
B: 전조등을 끈다
C: 안개등을 켠다
D: 상향전조등을 켠다
标准答案： A

119. 아래의 경우 추월해서는 안 된다.

标准答案：Y

120. 주행 중인 차량이 추월하려고 할 때에는 우선 좌측방향지시등을 켠 후 상향전조등 혹은 하향전조등으로 바꾸거나 경적을 울려야 한다.
标准答案： Y

121. 주행 중인 차량이 추월한 후 즉시 우회전등을 켜고 본래의 차선에서 주행해야 한다.
标准答案： N

122. 아래와 같은 경우 양측에서 모두 추월이 가능하다.

标准答案： N

123. 아래와 같은 경우 가속하여 추월할 수 있다.

标准答案： N

124. 아래와 같은 경우 우측에서 추월이 가능하다.

标准答案： N

125. 차량이 도시 주행 중 열차가 통과하지 않는 철로 건널목에서 추월이 가능하다.
标准答案： N

126. 주행 중인 차량이 터널, 험한 비탈길 등 특수구간에서 추월을 해서는 안 된다.
标准答案： Y

127. 아래와 같은 경우 주행 방법은?

A: 좌측방향지시등을 켠 후 좌측 방향으로 주행
B: 전조등을 켜고 마주오는 차량 운전자에게 알림
C: 가속하여 장애물을 피한 후 교차운행을 한다
D: 정차 후 상대방 차량에 양보함
标准答案： D

128. 차량이 중앙선이 없는 좁은 산길에서 교차운행할 때 올바른 통행 방법은?
A: 속도가 느린 차량이 먼저 통행한다.
B: 산길 바깥쪽에 있는 차량이 먼저 통행한다
C: 산길 안쪽에 있는 차량이 먼저 통행한다
D: 짐을 실은 화물차는 짐을 싣지 않은 화물차에게 길을 양보한다
标准答案：B

129. 야간도로에서 차량 교차운행 시 몇 m 거리에서 상향전조등을 하향전조등으로 바꾸어야 하는가?
A:50m 이내
B:100m 이내
C:150m 이내
D:200m 이내
标准答案： C

130. 차량 주행 시 중앙선이 없는 도로에서 상대방 차량이 마주올 때

乐驾中国CHINA DRIVE 版权所有

운전자가 취해야 할 조치는?
A:비차량 차선으로 주행
B:감속하면서 우측으로 주행
C: 도로중심을 향해 주행
D: 길가에 붙어서 주행
标准答案： B

131. 차량이 좁은 길, 좁은 다리에서 야간 교차운행을 할 때 올바른 조명 사용법은?
A:하향전조등을 켠다
B:상향전조등을 켠다
C:모든 조명을 끈다
D:전조등을 끈다
标准答案： A

132. 아래와 같은 경우에 우선통행이 가능하다.

标准答案： Y

133. 오르막길에 진입 전인 차량이 아래와 같은 경우에 내리막길을 주행하는 차량에 길을 양보한다.

标准答案： Y

134. 차량이 좁은 길, 좁은 다리에서 야간 교차운행을 할 때 올바른 조명사용법은 상향 전조등을 켜는 것이다.
标准答案： N

135. 고속도로에서 고장 혹은 교통사고로 정상적으로 주행할 수 없을 때 어떤 차량으로 견인해야 하나?

A:대형버스
B:동행한 차량
C:지나가는 차
D:레커차
标准答案： D

136. 이 교차로 통행방법은?

A:속도 감속없이 통행한다.
B: 가속하여 최대한 빨리 통행한다
C: 앞차를 바싹 뒤따라서 통행한다
D: 감속주행 혹은 정차 후 주위를 살핀다
标准答案： D

137. 아래의 교차로에서 좌회전 시 적합한 차선은?

A: 맨 우측 차선
B: 차선을 바꾸지 않는다
C: 중간 차선
D: 맨 좌측 차선
标准答案：D

138. 아래의 교차로에 적합한 좌회전 방법은?

A: 교차로 중심과 가까운 좌측을 향해 회전
B: 교차로 중심과 가까운 우측을 향해 회전

C: 교차로 중앙선을 밟고 회전한다
D: 좌회전이 불가능하다
标准答案： A

139. 아래에서와 같이 교차로 진입 후 올바른 통행방법은?

A: 교차로 내에 있는 앞차를 앞질러서 진입한다
B: 교차로 내에 있는 차량이 먼저 통행하게 한다
C: 경적을 울리면서 교차로에 진입한다
D: 비상깜박이를 켠 후 빠르게 진입한다
标准答案： B

140. 교차로에서 우회전을 할 때 동일한 차선에 있는 앞차가 기다림 신호를 보내왔을 때 운전자가 취해야 할 조치 중 정확한 것은?
A: 경적을 울려 앞차가 길을 양보하게 한다
B: 우측 차선을 점용 후 우회
C:앞차의 좌측으로 우회
D: 순서대로 정차하고 기다린다
标准答案： D

141. 아래의 교차로에 적합한 올바른 우회전방법은?

A: 곧바로 우회전을 한다
B: 반대편 차량이 먼저 좌회전을 하게끔 한다
C: 경적을 울리면서 독촉한다
D: 반대편 차량보다 앞서 우회전을 한다
标准答案：B

142. 아래에서와 같이 교차로에서 직진할 때 올바른 통행방법은?

A: 우측 도로 차량이 먼저 통행하게 한다
B: 비상깜박이를 켜고 통행한다
C: 좌측 도로 차량이 먼저 통행하게 한다
D: 가속하여 그냥 직진한다
标准答案： A

143. 아래의 경우에 적합한 올바른 교차로 통행방법은?

A: 좌측에서 오는 차량이 먼저 통행하게 한다
B: 경적을 울려 상대방 차량한테 알린다
C: 가속하여 그냥 회전한다
D: 감속서행하면서 회전한다
标准答案： A

144. 주행 중인 차량이 교통 신호가 없는 교차로에서의 올바른 통행방법은?
A: 감속서행
B: 가속주행
C: 대형차량에게 양보
D: 좌측차량에게 양보
标准答案： A

145. 주행 중인 차량이 교통 신호가 없는 무인경비 철로 건널목을 건널 때 올바른 통행방법은?
A: 기어를 중립상태에 놓고 통행한다
B: 정차하여 안전을 확인한 다음 다시 통행한다
C: 가속하여 최대한 빨리 통행한다
D: 속도를 적당히 감속하면서 통행한다
标准答案：B

146. 차량이 교차로를 주행할 때는 반드시 교통 신호를 준수해야 한다.
标准答案： Y

147. 주행 중인 차량이 교통 신호가 없는 교차로에서는 최대한 빨리 통행해야

乐驾中国CHINA DRIVE 版权所有

한다.
标准答案： N

148. 아래와 같은 철로 건널목을 지날 경우 가속하여 통과해야 한다.

标准答案： N

149. 아래와 같은 철로 건널목을 지날 경우 정차한 후 주위를 살펴보아야 한다.

标准答案： Y

150. 아래에서와 같이 교차로에서 회전할 때 직진 차량에 양보해야 한다.

标准答案： Y

151. 아래와 같은 교차로에서는 우선통행권을 가진다.

标准答案： Y

152. 아래와 같은 교차로에서는 우선통행권을 가진다.

标准答案： N

153. 막힐 때 올바르게 설명한 것은?

A: 순서대로 기다려야 한다
B: 우측 차로로 추월한다
C: 좌측 실선을 밟고 추월한다
D: 양측 차로 중 편한 것을 택하여 추월한다
标准答案： A

154. 아래처럼 앞차가 서행할 경우 올바르게 설명한 것은?

A: 순서에 따라 차례로 통행한다
B: 양측 차로 중 편한것을 택하여 추월한다
C: 우측 차로로 추월한다
D: 반대편 차량 차로를 점용하여 추월한다
标准答案： A

155. 아래와 같은 교차로에서는 어떻게 해야 하는가?

A: 정차금지지역에 정차한 후 기다린다
B: 교차로 내에 정차한 후 기다린다
C: 앞차를 뒤따라서 교차로를 통행한다
D: 교차로 밖에 정차한 후 기다린다
标准答案： D

156. 차선이 감소하는 교차로주행 시 앞차들이 차례로 정차하거나 서행할 경우 올바르게 설명한 것은?
A: 좌측 차로를 통해 교차로에 진입한다
B: 빈 공간을 찾아 교차로에 진입한다

C: 앞차의 우측 갓길을 통해 교차로에 진입한다
D: 차로에 있는 차량들이 차례로 교차로에 진입한다
标准答案： D

157. 차량 주행 중앞차들이 길게 정차했거나 서행할 경우 올바르게 설명한 것은?
A: 다른 차선으로 앞질러 나간다
B: 반대편 차량 차선을 점용한다
C: 멈춰있는 차량 사이를 통해 주행한다
D: 순서에 따라 차례로 통행한다
标准答案： D

158. 자동차가 주행 중에 전방 교차로가 막힐 경우 올바르게 설명한 것은?
A: 순서대로 교차로 밖에서 기다린다
B: 반대편 차량 차선으로 통행한다
C: 앞차 양측 빈 공간으로 주행한다
D: 교차로 내에 진입한 후 기다린다
标准答案： A

159. 운전 중 교통신호가 없는 교차로에서 전방 차량이 속도를 늦췄을 때 차례로 번갈아 지나간다.
标准答案： Y

160. 이런 상황에서는 속도를 높여 적색 차량 앞에서 차선을 변경해야 한다.

标准答案： N

161. 교차로에서 이런 상황에서는 적색 신호등이 켜지기 전에 가속해서 통과한다.

标准答案： N

162. 이런 도로 구간에서는 정차금지지대로 진입해 정차하고 기다릴 수 있다.

标准答案： N

163. 승용차는 이 위치에 정차할 수 없다.

标准答案： Y

164. 차량이 동일한 차도에서 주행 시 추월해서는 안 되는 차량은?

A: 중형 버스
B: 임무수행중인 소방차
C: 대형 버스
D: 초대형 화물차
标准答案： B

165. 차량은 침수도로를 통과할 때 속도를 높여 운행해야 한다.
标准答案： N

166. 침수된 다리를 지날 때는 침수 상황을 살피고 안전하다고 확인한 후 저속으로 통과한다.
标准答案： Y

167. 이런 상황에서는 어떻게 해야 하는가?

乐驾中国CHINA DRIVE 版权所有

A:경적을 울려 보행자의 주의를 환기시킨다.
B:정차해 보행자가 우선 지나가도록 한다.
C:보행자 앞에서 우회한다.
D:보행자 뒤쪽으로 돌아간다.
标准答案： B

168. 이런 교통 표시선이 있는 구간을 지날 때는 가속 운행해야 한다.

标准答案： N

169. 이런 상황에서는 정차하고 보행자가 지나가도록 양보해야 한다.

标准答案： Y

170. 이 교차로에서는 어떻게 U 턴을 해야 하나?

A:횡단보도에서 U턴 한다.
B:교차로 진입 후 U턴 한다.
C:우측 차선으로 U턴 한다.
D:중앙선점선에서 U턴 한다
标准答案： D

171. 사상자가 없고, 경미한 교통사고는 어떻게 처리하나?

A:차량을 움직이지 않는다.
B:현장에서 철수하고 자체적으로 협의한다.
C:다른 차량이 돌아가도록 한다.
D:현장을 잘 보존하고 다시 협상한다.
标准答案： B

172. 이 교차로에서는 U 턴 할 수 있다.

标准答案： N

173. 이 교차로에서는 U 턴 할 수 없다.

标准答案： N

174. 이 도로에서는 U턴 할 수 없다.

标准答案： Y

175. 철로, 교량, 급경사, 터널 혹은 위험이 쉽게 발생할 수 있는 구간을 운행할 때는 U턴 할 수 없다.
标准答案： Y

176. 이 구간에서는 다른 차량 운행에 영향을 주지 않는다는 전제 하에 U 턴 할 수 있다.

标准答案： Y

177. 이 운전자의 법률 규정 위반 행위는 무엇인가?

A:안전벨트를 착용하지 않았다.
B:의자 각도가 잘못되었다.
C:운전 자세가 옳지 않다.
D:규정에 따라 핸들을 잡지 않았다.
标准答案：A

178. 도로 주행 전 운전자는 반드시 규정에 따라 안전벨트를 착용해야 한다.
标准答案： Y

179. 도로 주행 시 보조석 탑승자는 안전벨트를 착용하지 않아도 된다.
标准答案： N

180. 주행 중 차량에 탑승한 소아 및 아동은 안전벨트를 착용할 필요가 없다.
标准答案： N

181. 다음 고장 차량은 어떤 위법행위를 했는가?

A:.경고 표시를 부착하지 않았다.
B: 비상깜박이를 켜지 않았다.
C: 차를 길가에 세우지 않았다.
D: 고장을 즉시 고치지 않았다.
标准答案： A

182. 주행 중 차량 고장으로 인해 정차 수리해야 할 경우 운전자는 어떻게 해야 하는가?
A:그 자리에 정차해 수리한다.
B:하향 전조등과 안개등을 켠다.
C:교통에 방해되지 않는 곳에 정차한다.
D: 도로 중간에 정차한다.
标准答案： C

183. 주행 중 차량 고장으로 옮기기 어려울 경우, 다음 중 옳은 방법은?
A:차량의 모든 라이트를 켠다.
B:비상깜박이를 켠다.
C:탑승자의 하차를 금지한다.
D:차량 전방에 경고 표식을 설치한다.
标准答案： B

184. 길가에 주차한 것은 위법행위가 아니다.

标准答案： N

185. 주행 중 고장으로 이동할 수 없는 경우, 차량 뒤쪽 50 미터 거리에 경고 표지를 놓는다.
标准答案： N

186. 경미한 교통사고로 인해 교통에 방해가 될 경우 차량을 이동할 필요가 없다.
标准答案： N

187. 야간에 차량 고장으로 이동이 어려운 경우 위험경고 비상깜박이, 차폭등, 후미등을 켜야 한다.
标准答案：Y

188. 이런 상황에서 앞 차는 어떻게 주행해야 하는가?

A:즉시 양보한다.

乐驾中国CHINA DRIVE 版权所有

B:비상깜박이를 켜고 달린다.
C:정상적으로 달린다
D:차도를 변경할 수 없다.
标准答案： A

189. 주행 중 임무 수행 중인 소방차, 구급차, 공사 차량을 보면 즉시 양보한다.
标准答案： Y

190. 주행 중 도로 복구 차량이 작업하고 있을 경우 양보해야 한다.
标准答案： Y

191. 길가에 이렇게 임시 정차한 것은 어떤 위법행위인가?

A:정차금지 표시선 구간 정차
B:차량도로 점용 정차
C:길 가로부터 거리 30cm 초과
D:비차량도로 정차
标准答案： A

192. 주행 차량이 길 가에 정차해야 할 경우 어떤 장소를 선택해야 하나?
A:인도에 잠시 정차한다
B:길가에 아무렇게 정차한다.
C:주차 위치에 정차한다.
D:좌측 도로변에 역방향으로 잠시 정차한다.
标准答案： C

193. 길가에 이렇게 임시 정차한 것은 어떤 위법행위인가?

A:횡단보도 정차
B:주차금지 구간 정차
C:비차량도로에 정차
D:길 가로부터 거리 30cm 초과
标准答案： A

194. 이렇게 임시 정차한 적색 차량은 어떤 위법행위를 했는가?

A: 주차금지 구간 정차
B:비차량도로 점용 정차
C:주유소와 거리 30 미터 미만에 정차
D:길 가로부터 거리 30cm 초과
标准答案： C

195. 이렇게 정차한 차량은 어떤 위법행위를 했는가?

A:인도 점용 주차
B:버스정류장 정차
C:주차금지 표시선 정차
D:비차량도로 정차
标准答案： B

196. 이 길에서 몇 미터 이내 구간에는 차량을 정차할 수 없는가?

A:30 미터 이내
B:50 미터 이내
C:5 미터 이내
D:10 미터 이내
标准答案： B

197. 다른 차량과 보행자 통행에 방해가 되지 않도록 도로에 임시 정차한다.
标准答案： Y

198. 주차위치를 찾을 수 없는 경우 인도에 주차할 수 있다.
标准答案： N

199. 교차로에서 50 미터 이내 구간에는 주차할 수 없다.
标准答案： Y

200. 이 구간에서는 비차량도로에 임시 주차할 수 있다.

标准答案： N

201. 소화전 혹은 소방서 앞 30 미터 이내 구간에는 주차할 수 없다.
标准答案： Y

202. 교량, 급경사, 터널과 50 미터 이내 구간에는 주차할 수 없다.
标准答案： Y

203. 폭 4 미터 미만의 좁은 길 50 미터 이내에는 주차할 수 없다.
标准答案： Y

204. 완전히 정차하기 전에 차 문을 열거나 타고 내릴 수 없다.
标准答案：Y

205. 차량 문을 열 때 다른 차량과 보행자를 불편하게 해서는 안 된다.
标准答案： Y

206. 다음 고속도로 구간 주행 시 최고 속도는?

A: 시속 120km
B: 시속 100km
C: 시속 60km
D: 시속 90km
标准答案： A

207. 다음 고속도로 구간 주행 시 최저 속도는?

A: 시속 80km
B: 시속 60km
C: 시속 100km
D: 시속 50km
标准答案： B

208. 이 도로 구간 주행 시 최저 속도는?

A: 시속 60km
B: 시속 90km
C: 시속 100km
D: 시속 110km
标准答案： C

209. 이 도로 구간 주행 시 최저 속도는?

A: 시속 100km
B: 시속 60km
C: 시속 110km
D: 시속 90km
标准答案： D

210. 이 도로 구간 주행 시 최고 속도는?

A: 시속 100km
B: 시속 110km
C: 시속 120km

乐驾中国CHINA DRIVE 版权所有

D: 시속 90km
标准答案： D

211. 이 도로 구간 주행 시 최고 속도는?
A: 시속 100km
B: 시속 110km
C: 시속 120km
D: 시속 90km
标准答案： D

212. 고속도로에서는 속도 제한 표시 규정에 따라 주행해야 한다.
标准答案： Y

213. 이 위치에서는 어떤 등을 사용해야 하나?

A:전조등
B:비상깜박이
C:좌회전 방향지시등
D:우회전 방향지시등
标准答案： C

214. 감속차선에 진입했을 경우 어떤 등을 사용하는가?

A:우회전 방향지시등을 켠다
B:좌회전 방향지시등을 켠다
C:전조등을 켠다
D:비상깜박이를 켠다.
标准答案： A

215. 고속도로를 시속 100km 이상으로 주행하는 승용차의 차간 거리는?
A:60 미터 이상 유지
B:50 미터 이상 유지
C:80 미터 이상 유지
D:100 미터 이상 유지
标准答案： D

216. 고속도로를 시속 100km 이하로 주행하는 승용차의 차간 거리는?
A:50 미터 이상
B:30 미터 이상
C:20 미터 이상
D:10 미터 이상
标准答案： A

217. 가시거리 200m 이하인 기상 상황에서 고속도로 주행시 최고 속도는?
A:시속 90km
B:시속 100km
C:시속 80km
D:시속 60km
标准答案： D

218. 가시거리 100m 이하인 기상 상황에서 고속도로 주행시 최고 속도는?
A:시속 80km
B:시속 90km
C:시속 60km
D:시속 40km
标准答案： D

219. 가시거리 50m 이하인 기상상황에서 고속도로 주행시 시속 20km 이하 수준을 유지하는 것 외에 어떻게 해야 하는가?
A:갓길에서 저속 주행한다.
B:재빠르게 고속도로를 빠져 나간다
C:신속하게 길 가에 정차한다.
D:긴급도로로 진입 주행한다.
标准答案： B

220. 고속도로 주행 시 이 위치에서는 어떻게 주행해야 하나?

A:시속 40km 이하를 유지한다.
B:시속 100km 를 유지한다.
C:계속 직진한다.
D:감속차선으로 진입 주행한다.
标准答案： D

221. 이 위치에서 직접 고속도로 주행차선으로 진입할 수 있다.

标准答案： N

222. 고속도로에서 빠져 나와 이 위치에서 직접 진입로로 들어갈 수 있다.

标准答案： N

223. 이 승용차의 고속도로 진입 행위는 바르다.

标准答案： N

224. 이 승용차의 고속도로 진입 방법은 바르다.

标准答案： Y

225. 고속도로에서 고장으로 임시 정차할 경우 경고 표지는 차량의 후방 몇 미터 지점에 놓아야 하는가?

A:150 미터 밖
B:50~150 미터 사이
C:50~100 미터 사이
D:50 미터 이내
标准答案： A

226. 고속도로에서 차량 고장 시 잘못된 방법은?
A:규정에 따라 경고 표지를 세운다.
B:탑승자들은 내릴 수 없다.
C:비상깜박이를 켠다.
D:빨리 경찰에 신고한다.
标准答案： B

227. 고속도로에서 고장 혹은 교통사고로 정상적으로 주행할 수 없을 때 어떤 차량으로 견인해야 하나?
A:동행한 차량
B:레커차
C:지나가는 차
D:대형버스
标准答案： B

228. 고속도로에서 고장이 났을 경우 50-100 미터 사이 후방에 경고 표시를 놓는다.
标准答案： N

229. 고속도로에서 고장이 났을 경우 차에 탑승한 전원을 우측 갓길 혹은 긴급차도 안으로 이동시키고, 신속하게 경찰에 신고한다.
标准答案： Y

230. 고속도로에서 사고로 정상 주행할 수 없을 경우, 구조차 혹은 견인차를 이용해 견인한다.
标准答案： Y

231. 사상자가 없고, 경미한 교통사고는 어떻게 처리하나?
A:현장을 잘 보존하고 다시 협상한다.
B:차량을 움직이지 않는다.
C:다른 차량이 돌아가도록 한다.
D:현장에서 철수하고 자체적으로 협의한다.
标准答案： D

232. 도로상에서 교통사고가 발생하면 차량을 즉시 길 옆으로 옮긴다.
标准答案：N

233. 운전자는 교통사고 후 부상자를 이송할 때, 위치를 표시해 두어야 한다.

乐驾中国CHINA DRIVE 版权所有

标准答案： Y

234. 교통사고로 사상자가 생겼을 때 즉시 구급대원을 부르고 경찰에 신고해야 한다.
标准答案： Y

235. 운전자의 연속 운전 시간은 몇 시간을 초과해서는 안 되는가?
A:4 시간
B:10 시간
C:8 시간
D:6 시간
标准答案： A

236. 4 시간 이상 운전한 경우, 운전자는 정차시 최소한 적어도 어느 정도 휴식해야 하나?
A:20 분
B:10 분
C:15 분
D:5 분
标准答案： A

237. 어떤 상황에서 주행해서는 안 되나?
A:차문이 잘 닫혀있지 않은 상태
B:창문을 연 상태
C:썬루프가 잘 닫혀있지 않은 상태
D:운전자가 안전벨트를 맨 상태
标准答案： A

238. 내리막길 주행시 해서는 안 되는 위험한 행동은?
A:사전에 기어를 낮춘다
B:중립기어로 주행한다.
C:저속 기어로 주행한다.
D:브레이크를 밟아 감속한다.
标准答案： B

239. 이 도로는 경적을 울리는 빈도를 반드시 줄여야 한다.

标准答案：N

240. 차 문과 트렁크가 잘 닫혀있지 않았을 경우 출발해서는 안 된다.
标准答案： Y

241. 운전석 앞유리와 뒷유리에는 운전자의 시야를 방해하는 물건을 놓거나 걸지 말아야 한다.
标准答案： Y

242. 주행 중 도로 상황이 좋을 경우 차량용 TV 를 시청할 수 있다.
标准答案： N

243. 소형차는 내리막 길 주행시 엔진을 끄고 갈 수 있다.
标准答案： N

244. 운전 중 도로에 물건을 투기할 수 있다.
标准答案： N

245. 운전자의 교통운송관리법규 위반으로 교통사고 사상자가 생기면 3 년 이하의 징역에 처해질 수 있다.
标准答案： Y

246. 운전자의 교통운송관리법규 위반으로 교통사고 사상자가 생기면 3 년 이상의 유기 징역에 처해질 수 있다.
标准答案： N

247. 운전자의 교통운송관리법규 위반으로 인한 대형사고로 공공 및 개인의 재산에 중대한 손실이 발생한 경우 3 년 이하의 징역에 처해질 수 있다.
标准答案： Y

248. 운전자가 교통운송관리법규 위반하고 교통사고 사망자를 낸 후 도주한 경우 몇 년의 유기징역에 처해지는가?
A:10 년 이상
B:7 년 이상
C:3 년 이상 7 년 이하
D:3 년 이하
标准答案： C

249. 운전자의 교통운송관리법규 위반으로 중대 사고를 내고 도주로 인해 사망자가 생겼을 경우 몇 년의 유기징역에 처해지는가?
A:2 년 이하

B:7 년 이하
C:3 년 이하
D:7 년 이상
标准答案： D

250. 교통운송관리법규를 어긴 운전자가 중대한 교통사고를 낸 후도주 혹은 기타 다른 행위를 저질렀을 경우 7 년 이상의 유기징역에 처한다.
标准答案：N

251. 교통운송관리법규를 어긴 운전자가 중대한 교통사고를 낸 후 도주로 인해 사람이 사망하였을 경우 3 년 이상 7 년 이하의 유기징역에 처한다.
标准答案：N

252. 주행 중에 난폭운전으로 심각한 상황이 발생했을 경우 어떤 처벌을 받을 수 있는가?
A: 단기징역형 및 벌금 부과
B: 단속 및 벌금 부과
C: 일년 이상 징역에 처한다
D: 6 개월간 징역에 처한다
标准答案： A

253. 주행 중 난폭운전으로 심각한 상황이발생했을 경우 3 년 이하의 유기징역에 처한다.
标准答案： N

254. 음주후 도로를 주행하면 받게 되는 처벌은?
A: 2 년 이하 유기징역에 처한다
B: 단기징역형 및 벌금 부과
C: 2 년 이상 징역에 처한다
D: 단속 및 벌금 부과
标准答案： B

255. 운전자가 음주운전을 할 경우 3 년 이상 유기징역에 처한다.
标准答案： N

256. 다음 중교통경찰이 법에 따라 차량을 압류할 수 있는 경우는?
A: 신분증이 없는 경우
B: 도시환경보호표시가 없는 경우
C: 보험 계약서가 없는 경우
D: 자동차 번호판을 달지 않은 경우
标准答案： D

257. 다음 중 교통경찰이 법에 따라 차량을 압류할 수 있는 경우는?
A: 도시환경보호표시가 없는 경우
B: 자동차 검사합격증이 없는 경우
C: 신분증이 없는 경우
D: 자동차등록증이 없는 경우
标准答案： B

258. 다음 중교통경찰이 차량을 압류할 수 있는 경우는?
A: 자동차등록증이 없는 경우
B: 보험 계약서가 없는 경우
C: 도시환경보호표시가 없는 경우
D: 보험 표시가 없는 경우
标准答案： D

259. 다음 중 미 소지시 운전자의 차량이 교통경찰에게 압류될 수 있는것은?
A: 운전면허증 미 소지
B: 신분증 미 소지
C: 자동차운행증 미 소지
D: 취업자격증 미 소지
标准答案： A

260. 다음 중 미 소지시 운전자의 차량이 교통경찰에게 압류될 수 있는것은?
A: 운전면허증
B: 신분증
C: 자동차운행증
D: 취업자격증
标准答案： A

261. 주행 중인 차량에 검사합격표시가 붙어있지 않으면 교통경찰은 법에 따라 차량을 압류할 수 있다.
标准答案： Y

262. 주행 중인 차량에 보험표시가 붙어있지 않으면 법에 따라 차량 운행증이 압류될 수 있다.
标准答案： N

263. 차량 번호판이나 운행증의 위조 또는 변조 혐의가 있을 시 법에 따라 해당 차량이 압류될 수 있다.
标准答案：Y

264. 검사합격표시의 위조 또는 변조

乐驾中国CHINA DRIVE 版权所有

혐의가 있는 차량에 대해 교통경찰은 차주에게 벌금형만 내린다.
标准答案： N

265. 다른 차량의 번호판이나 운행증을 사용한 차량에 대해서는 법에 따라 해당 차량을 압류할 수 있다.
标准答案： Y

266. 교통경찰은 국가규정제도에 따라 자동차보험에 가입하지 않은 차량에 대해 법에 따라 해당 차량을 압류할 수 있다.
标准答案： Y

267. 교통경찰은 교통사고의 증거확보를 위해 법에 따라 해당 사고차량을 압류할 수 있다.
标准答案： Y

268. 다른 차량의 번호판이나 운행증을 사용한 혐의가있는 차량에 대해서 교통경찰은 법에 따라 해당 차량을 압류할 수 있다.
标准答案： Y

269. 다른 차량의 검사합격표시를 사용한 혐의가있는 차량에 대해서 교통경찰은 법에 따라 해당 차량을 압류할 수 있다.
标准答案：Y

270. 다른 차량의 보험표시를 사용한 혐의가 있는 차량에 대해서 교통경찰은 법에 따라 해당 차량을 압류할 수 있다.
标准答案： Y

271. 다음 중 교통경찰에 의해 운전면허증이 압류될 수 있는 운전자는?
A: 피로 운전
B: 규정속도 10% 초과
C: 음주 운전
D: 차량 주행 시 좌석안전벨트 미착용
标准答案： C

272. 다음 중차량주행 시 교통경찰에 의해 면허증이 압류될 수 있는 사람은?
A: 면허정지 처분을 받은 사람
B: 면허증 벌점 기록이 6 점에 달하는 사람
C: 운전면허 소지자
D: 연습면허 중에 운전한 사람
标准答案： A

273. 운전자가 자신의 차량을 면허정지 처분을 받은 사람에게 넘겨줄 경우 교통경찰은 법에 따라 운전면허증을 압류할 수 있다.
标准答案： Y

274. 운전자가 본인의 차량을 면허증이 잠시 압류되어 있는 사람에게 넘겼을 경우 교통경찰은 해당 운전자에게 구두로 경고한다.
标准答案： N

275. 운전자가 폐기처분기준에 도달한 차량을 운전했을 경우 교통경찰에 의해 구속될 수 있다.
标准答案： N

276. 운전자의 일정한 주기 내 벌점 기록이 12 점에 달한다면 교통경찰에 의해 면허증이 압류된다.
标准答案： Y

277. 자동차 주행 중에 건축물이나 공공시설에 부딪혔을 경우 즉시 현장을 떠난다.
标准答案： N

278. 교통사고로 인해 사람이 다쳤을 경우 현장을 보존함과 동시에 즉시 경찰에 신고해야 한다.
标准答案： Y

279. 교통사고가 발생한 후 운전자가 음주 또는 만취를 한 혐의가 있으면 현장을 보존하고, 즉시 경찰에 신고해야 한다.
标准答案： Y

280. 교통사고 발생 후 해당 차량이 번호판, 검사합격표시, 보험표시가 없다면 현장을 보존하고, 즉시 경찰에 신고해야 한다.
标准答案： Y

281. 교통사고로 인해 재산피해가 발생하였을 경우 당사자가 사건 및 발생원인에 이의가 없다면 일단 사고 현장을 철수해도 된다.
标准答案： Y

282. 교통사고로 인해 재산피해가 발생하였을 경우, 당사자가 이의가 없어 해당 차량을 이동하려고 할 때 현장 사진 촬영 및 위치 표시가 필요하다.
标准答案： Y

283. 교통사고로 인해 재산피해가 발생했을 경우 당사자가 자발적으로 현장을 철수해야 하나 철수하지 않으면 교통경찰이 당사자들의 현장 철수를 강요할 수 없다.
标准答案： N

284. 교통사고로 인해 재산피해가 발생했을 경우 당사자가 현장을 떠나지 않으면 교통체증을 야기할 수 있다. 이에 교통경찰은 운전자에게 범칙금 200 위안을 부과할 수있다.
标准答案： Y

285. 승용차 면허증 신청 가능 연령범위는?
A:21 세 이상 50 세 이하
B:18 세 이상 70 세 이하
C:18 세 이상 60 세 이하
D:24 세 이상 70 세 이하
标准答案： B

286. 다음 중 3 년 내에 차량 면허증 신청이 불가능한 행위에 속하는 것은?
A: 인슐린 주사
B: 지나친 흡연
C: 음주
D: 마약주사
标准答案： D

287. 음주운전 교통사고로 인해 형사책임을 진 자는 면허증 신청을 하지 못한다.
标准答案： Y

288. 교통사고발생후 도주하여 범죄가 성립된 경우 차량 면허증 신청을 하지 못한다.
标准答案： Y

289. 운전자면허 유효기간 만료 전 갱신해야 하는 기간은?
A:60 일 이내
B:90 일 이내
C:6 개월 이내
D:30 일 이내
标准答案： B

290. 차량 면허증의 운전자 변경사항 신청기간은?
A:50 일 내
B:30 일 내
C:60 일 내
D:40 일 내
标准答案： B

291. 운전면허증 호적소재지 차량관리소 관할범위 이외에 거주하는 운전자일 경우 현 거주지 차량관리소에서 갱신신청을 할 수가 있다.
标准答案： Y

292. 도로교통위법행위 벌점 기록 주기는 얼마인가?
A:14 개월
B:6 개월
C:10 개월
D:12 개월
标准答案： D

293. 도로교통안전위법행위 주기 내 누적기록 벌점 만점은 12 점이다.
标准答案： Y

294. 운전자의 벌점이 만점에 달하지 않고, 벌금이 미납된 상태인 경우 해당 기록은 다음 벌점 주기로 넘어가게 된다.
标准答案：Y

295. 다음 중 소형차 면허증을 소지하고 있는 운전자가 면허증 심사를 받아야 하는 경우는?
A: 위법기록이 만점인 12 점에 도달했을 경우
B: 위법기록의 해당 주기가 끝날 무렵
C: 유효기간 만료 후 면허증을 다시 갱신해야 할 경우
D: 주기 내 위법기록이 만점에 도달하지 않았을 경우
标准答案： C

296. 운전자가 병역, 출국 등 원인으로 심사에 참가 하지 못했을 때 심사연기기간은 얼마를 초과해서는 안 되는가?

乐驾中国CHINA DRIVE 版权所有

A:3 년
B:5 년
C:2 년
D:1 년
标准答案： A

297. 소형차 운전자는 교통사고로 인해 사람을 숨지게 한 후 관련 법적 책임을 모두 졌으나 운전면허증이 취소되지는 않았다. 이때에는 벌점 기록 주기가 끝난 후 30 일 내에 반드시 면허증 심사를 다시 받아야 한다.
标准答案： Y

298. 병역, 출국 등으로 심사가 연기된 기간에는 차량을 운전할 수가 없다.
标准答案：Y

299. 60 세 이상 운전자가 신체검사서를 제출해야 하는 기간은?
A: 매 3 년마다
B: 매 2 년마다
C: 매 6 개월마다
D: 매 1 년마다
标准答案： D

300. 대형버스, 트레일러, 도시버스, 중형버스, 대형화물차 운전자는 매 2 년에 한번씩 신체검사서를 제출해야 한다.
标准答案： N

301. 운전자가 자동차 면허증을 처음 취득 후 다른 차종의 면허를 취득하려 할 때얼마 동안의 연습 면허 기간을 거쳐야 하는가?
A: 12 개월
B: 2 년
C: 6 개월
D: 3 개월
标准答案： A

302. 면허증을 처음 취득한 운전자는 연습면허기간 내에 혼자서 고속도로 주행을 할 수 있다.
标准答案： N

303. 연습기간 중 주행 시 반드시 차 뒤쪽에 통일된 규격의 연습표시를 붙이거나 걸어두어야 한다.
标准答案： Y

304. 연습 기간 중 처분벌점 12 점을 기록한 운전자는 허용한 차종의 주행 자격을 취소한다.
标准答案： Y

305. 허위자료로 면허증을 취득한 자는 어떠한 법률적 책임을 져야 하는가?
A: 신청 받은 차종의 면허증 자격을 취소한다
B: 1 년 내에 면허증 신청을 하지 못한다
C: 20 위안 이상 200 위안 이하의 벌금형에 처한다
D: 2 년 내에 면허증 신정을 하지 못한다
标准答案： B

306. 차량 면허증을 위조, 변조하거나 그것을 사용한 운전자의 범죄가 성립되면 법에 따라 형사책임을 규명해야 한다.
标准答案： Y

307. 운전자가 1 회에 벌점 12 점을 기록할 수 있는 위법행위는?
A: 전화기 사용
B: 금지표지 지시 위반
C: 위조된 차량번호판 사용
D: 교통신호 위반
标准答案： C

308. 운전자가 허용되지 않은 차종을 운행했을 경우 받게 되는 벌점은?
A:12 점
B:6 점
C:3 점
D:2 점
标准答案： A

309. 음주운전 차량이 받게 되는 벌점은?
A:2 점
B:3 점
C:12 점
D:6 점
标准答案： C

310. 교통사고 후 도주하였으나 범죄가 성립되지 않는 경우 받게되는 벌점은 몇점인가?
A:3 점
B:12 점
C:6 점

D:2 점
标准答案： B

311. 차량번호판을 달지 않고 주행했을 때 받게 되는 벌점은?
A:2 점
B:6 점
C:3 점
D:12 점
标准答案： D

312. 차량번호판을 고의로 가리거나 훼손 및 규정에 따라 달지 않았을 경우 받게 되는벌점은?
A:12 점
B:6 점
C:2 점
D:3 점
标准答案： A

313. 위조, 변조된 차량번호판을 사용했을 때 받게 되는 벌점은?
A:3 점
B:12 점
C:6 점
D:2 점
标准答案： B

314. 위조, 변조된 차량 운행증을 사용했을 때 받게 되는 벌점은?
A:12 점
B:6 점
C:3 점
D:2 점
标准答案： A

315. 운전자가 1 회에 벌점 6 점을 받게 되는 위법행위는?
A:다른 차량의 운행증사용
B: 갓길 위법 점용
C:음주운전
D: 차량 규정속도 50%이상 초과
标准答案： B

316. 주행 중인 차량이 교통신호위반 시 받게 되는 벌점은?
A:12 점
B:6 점
C:3 점
D:2 점
标准答案：B

317. 운전자가 1 회에 벌점 6 점을 기록하게 되는 위법행위는?
A: 교통 신호 위반
B: 실제로 운전하는 차량과 면허증의 차종이 다른 경우
C: 음주운전 시
D: 스쿨 버스운행 자격이 없는 운전자의 차량운행
标准答案： A

318. 이런 환경에서 길목을 통과할 때 어떻게 라이트를 사용하는가?
A:상향전조등을 끈다
B:상향전조등을 켠다.
C:상하향전조등을 번갈아 사용한다.
D:비상깜박이를 켠다
标准答案： C

319. 교통사고 도주했으나 범죄가 성립되지 않는 경우 1 회에 벌점 12 점을 받는다.
标准答案： Y

320. 음주운전을 한 차량은 1 회에 벌점 12 점을 받는다.
标准答案： Y

321. 위조, 변조된 면허증은 1 회에 벌점 12 점을 받는다.
标准答案： Y

322. 타인의 차량번호판, 운행증을 사용하면 1 회에 벌점 3 점을 받는다.
标准答案： N

323. 주행 중인 차량이 고속도로 입구에서 후진, 역주행, 중앙선을 통과하면서 유턴하면 각기 벌점 6 점을 받는다.
标准答案： N

324. 교통신호 위반 시 1 회에 벌점 6 점을 받는다.
标准答案： Y

325. 차량이 규정속도의 50%이상을 초과하게 되면 1 회에 벌점 12 점을 받는다.
标准答案： Y

326. 차량이 규정속도의 50%이상을 초과하게 되면 1 회에 벌점 3 점을 받는다.
标准答案： N

327. 주행 중인 차량이 고속도로에서 갓길을 점용하게 되면 1 회에 벌점 6 점을 받는다.
标准答案： Y

328. 주행 중인 차량이 학교 셔틀버스에 길을 양보하지 않게 되면 1 회에 벌점 6 점을 받는다.
标准答案： Y

329. 등록된 소형여객버스가 다음 중 소유인 변경등록을 하지 않아도 되는 경우는?
A: 차체 색깔을 바꾸었을 때
B: 차 앞뒤에 방어장치를 달았을 때
C: 차체 혹은 프레임을 교체했을 때
D: 차량 엔진을 교체했을 때
标准答案： B

330. 차량이 이미 국가가 규정한 폐차 기준에 도달하였을 때는 신규등록을 할 수 없다.
标准答案： Y

331. 차량 운행증을 멸실, 분실하였을 경우 차량 소유인은 등록되어 있는 차량관리소에서 다시 재발급 받을 수 있다.
标准答案： Y

332. 차량번호판이 훼손되었을 경우 차량 소유인은 등록되어 있는 차량관리소에서 다시 재발급 받을 수 있다.
标准答案： Y

2、도로교통신호 및 의미

道路交通信号及含义（269 题）

1. 교차로에서 직진 시 다음과 같은 신호등을 보았을 때 운전자가 취해야 할 조치는?

A: 가속하여 직진한다
B: 좌회전한다
C:교차로 진입 후 기다린다
D:정차선을 넘어서는 안된다
标准答案： D

2. 아래와 같이 주행 중인 차량이 이 위치에 있을 때 앞 타이어가 정차선을 넘어섰다면 계속 주행해도 된다.

标准答案： N

3. 아래와 같은 신호등이 켜졌을 경우교차로에서 우회전을 할 수가 있다.

标准答案： Y

4. 운전 중 교차로에서 이런 신호일 경우 통행을 금지한다.

标准答案： N

5. 녹색 신호등은 차량이 통행할 수

乐驾中国CHINA DRIVE 版权所有

있음을 의미한다.
标准答案： Y

6. 운전 중 이런 신호에서는 선 앞에서 멈춰 주위를 둘러보아야 한다.

标准答案： N

7. 운전 중 이런 신호에서는 우회전 할 수 없다.

标准答案： N

8. 운전 중 이런 신호에서는 반대편 직진 차량 앞에서 직접 좌회전할 수 있다.

标准答案： N

9. 이런 신호등은 무엇을 뜻하는가?

A:가속 통과
B:우회전 금지
C:교차로 경고
D:직진 가능
标准答案：C

10. 운전 중 이런 신호등에서는 가속하여 통과한다.

标准答案： N

11. 전방 교차로에서는 우회전할 수 없다.

标准答案： N

12. 이 신호에서는 이미 정지선을 넘었을 경우 계속 통과할 수 있다.

标准答案： Y

13. 이 상황에서는 어떻게 주행해야 하는가?

A:감속으로 양측 차도로 진입해 주행한다.
B:양측 차도 통행을 금지한다
C:우측 차도로 진입해 주행한다.
D:가속으로 양측 차도로 진입해 주행한다.
标准答案： B

14. 이런 상황에서는 차량의 중간 차선 통행을 허가하지 않는다

乐驾中国CHINA DRIVE 版权所有

标准答案： Y

15. 적색 차량은 이 차선에서 주행할 수 있다.

标准答案： N

16. 화살표 표시 녹색등이 켜져 있는 차선을 선택해 주행해야 한다.

标准答案： Y

17. 이 교차로에서는 차량이 어떻게 주행할 수 있는가?

A:직진 또는 좌회전 할 수 있다
B:좌회전, 우회전할 수 있다
C:직진 또는 우회전 할 수 있다.
D:좌회전 할 수 있다.
标准答案： C

18. 이 교차로에서는 어떻게 주행할 수 있는가?

A:좌회전할 수 있다
B:직진할 수 있다
C:직진 또는 우회전할 수 있다
D:우회전할 수 있다.
标准答案： A

19. 이 교차로에서는 차량이 어떻게 주행할 수 있는가?

A:직진할 수 있다.
B:직진 또는 좌회전할 수 있다.
C:좌회전할 수 있다.
D:우회전할 수 있다.
标准答案： D

20. 이런 상황에서는 좌회전할 수 없다.

标准答案： Y

21. 이런 상황에서는 우회전할 수 있다.

标准答案： N

22. 이런 상황에서는 직진 또는 좌회전할 수 없다.

标准答案： Y

23. 이런 신호등이 깜박일 경우 어떻게 주행해야 하는가?

A:길 가에 정차하고 기다린다.
B:통행을 금지한다
C:주위를 잘 살피고 안전하게 통과한다.
D:재빨리 가속해 통과한다

标准答案： C

24. 교차로에서 황색 신호등이 깜박일 경우 운전자는 주위를 잘 살피고 안전이 확인되면 통과한다.
标准答案： Y

25. 황색 신호등이 깜박일 경우 차량은 속도를 높여 통과할 수 있다.
标准答案： N

26. 철로 건널목에서 이런 신호가 켜지면 어떻게 주행해야 하는가?

A:정지선을 넘어서는 안 된다.
B:주변을 관찰하면서 천천히 통과한다
C:기어를 바꾸지 않고 가속 통과한다.
D:기차가 오기 전에 통과한다.
标准答案： A

27. 철로 건널목에서 두 개의 적색등이 깜박일 경우 정차하고 기다려야 한다.

标准答案： Y

28. 도로와 철로 건널목에서 적색 신호등이 켜지면 재빠르게 건널목을 통과해야 한다.

标准答案： N

29. 이것은 어떤 표지인가?

A:경고표지
B:길 안내표지
C:지시표지
D:금지표지
标准答案： A

30. 이 표지의 뜻은?

A:十자 교차로
B:순환교차로
C:T 자 교차로
D:Y 자 교차로
标准答案： A

31. 이 표지의 뜻은?

A:十자 교차로
B:Y 자 교차로
C:순환교차로
D:T 자 교차로
标准答案：D

32. 이 표지의 뜻은?

A:우측으로 우회
B:왼쪽 급커브
C:오른쪽 급커브
D:연속 커브

乐驾中国CHINA DRIVE 版权所有

标准答案： C

33. 이 표지의 뜻은?

A:좌측으로 우회
B:오른쪽 급커브
C:왼쪽 급커브
D:연속 커브
标准答案：C

34. 이 표지의 뜻은?

A:연속 커브길
B:S 자형 커브길
C:급커브길
D:N 자형 커브길
标准答案：B

35. 이 표지의 뜻은?

A:N 자형 커브길
B:급커브길
C:S 자형 커브길
D:연속 커브길
标准答案： D

36. 이 표지의 뜻은?

A:제방겸용도로
B:급경사 오르막
C:연속 오르막
D:급경사 내리막
标准答案： B

37. 이 표지의 뜻은?

A:제방겸용도로
B:오르막경사
C:내리막경사
D:연속 오르막
标准答案： C

38. 이 표지의 뜻은?

A:연속 오르막
B:오르막경사
C:내리막경사
D:연속 내리막
标准答案： D

39. 이 표지의 뜻은?

A:양측 좁아짐
B:우측 좁아짐
C:좌측 좁아짐
D:폭 좁아짐
标准答案： A

40. 이 표지의 뜻은?

A:폭 좁아짐
B:양측 좁아짐
C:좌측 좁아짐
D:우측 좁아짐
标准答案： D

41. 이 표지의 뜻은?

A:좌측 좁아짐
B:양측 좁아짐
C:우측 좁아짐
D:폭 좁아짐
标准答案： A

42. 이 표지의 뜻은?

A:좌측 좁아짐
B:좁은 다리
C:우측 좁아짐
D:좁은길
标准答案： B

43. 이 표지의 뜻은?

A:2 방향 교통
B:감속 양보
C:분리식 도로
D:가변도로
标准答案： A

44. 이 표지의 뜻은?

A:학교 구역
B:횡단보도
C:어린이 주의
D:보행자 주의
标准答案： D

45. 이 표지의 뜻은?

A: 보행자 주의
B: 횡단보도
C: 어린이 주의
D: 학교 구역
标准答案： C

46. 이 표지의 뜻은?

A:대형 목축장
B:야생동물 주의
C:가축 주의
D:야생동물 보호구역
标准答案：C

47. 이 표지의 뜻은?

A:야생동물 주의
B:동물원
C:가축 주의
D:개방 방목지
标准答案： A

乐驾中国CHINA DRIVE 版权所有

48. 이 표지의 뜻은?

A:교차로 입구
B:신호등 주의
C:보행자 주의
D:횡단보도 신호등
标准答案： B

49. 이 표지의 뜻은?

A:위험구간
B:산길 구간
C:낙석주의
D:낭떠러지 구간
标准答案： C

50. 이 표지의 뜻은?

A:풍향계
B:횡풍주의
C:터널입구
D:기상대
标准答案： B

51. 이 표지의 뜻은?

A:미끄러운 구간
B:시운전 구간
C:급커브길
D:곡선 구간
标准答案：A

52. 이 표지의 뜻은?

A: 낭떠러지
B: 낙석구간
C: 제방겸용도로
D: 산길 위험 구간
标准答案： D

53. 이 표지의 뜻은?

A:미끄러운 도로
B:낭떠러지 인접 도로
C:강변도로
D:제방겸용도로
标准答案： D

54. 이 표지의 뜻은?

A:횡단보도 있음
B:초등학교 있음
C:마을 또는 읍
D:보행자 주의
标准答案： C

55. 이 표지의 뜻은?

A:수로
B:교량

C:터널
D:배수구
标准答案： C

56. 이 표지의 뜻은?

A:선박 부두
B:나루터
C:젖은 길 지남
D:침수된 다리
标准答案： B

57. 이 표지의 뜻은?

A:과속 방지턱
B:움푹 패인 노면
C:험프 브리지
D:노면 고르지 못함
标准答案： C

58. 이 표지의 뜻은?

A:노면 고르지 못함
B:험프 브리지
C:움푹 패인 노면
D:과속 방지턱
标准答案： A

59. 이 표지의 뜻은?

A:노면 고르지 못함
B:과속 방지턱
C:험프 브리지
D:움푹 패인 노면
标准答案： B

60. 이 표지의 뜻은?

A:과속 방지턱
B:험프 브리지
C:노면 고르지 못함
D:움푹 패인 노면
标准答案： D

61. 이 표지의 뜻은?

A:흙탕길
B:움푹 패인 노면
C:수로 건너기
D:나루터
标准答案： C

62. 이 표지의 뜻은?

A:여러 철길과 도로가 서로 교차됨
B:무인 철길 건널목
C:유인 철길 건널목
D:입체 교차식 철길 교차로
标准答案： C

63. 이 표지의 뜻은?

乐驾中国CHINA DRIVE 版权所有

A:여러 철길과 도로가 서로 교차됨
B:장시간 경적 울림 주의
C:무인 철길 건널목
D:유인 철길 건널목
标准答案： C

64. 이 표지의 뜻은?

A:기차 양보 주의
B:유인 철길 건널목
C:무인 철길 건널목
D:여러 철길과 도로가 서로 교차됨
标准答案： D

65. 이 표지의 뜻은?

A:무인 철길 건널목 100 미터 거리
B:무인 철길 건널목 50 미터 거리
C:유인 철길 건널목 50 미터 거리
D:유인 철길 건널목 100 미터 거리
标准答案： B

66. 이 표지의 뜻은?

A:무인 철길 건널목 100 미터 거리
B:유인 철길 건널목 50 미터 거리
C:유인 철길 건널목 100 미터 거리
D:무인 철길 건널목 50 미터 거리
标准答案： A

67. 이 표지의 뜻은?

A:유인 철길 건널목 150 미터 거리
B:무인 철길 건널목 150 미터 거리
C:무인 철길 건널목 100 미터 거리
D:유인 철길 건널목 100 미터 거리
标准答案： B

68. 이 표지의 뜻은?

A:비차량도로 통행 금지
B:비차량 주의
C:비차량에 양보
D:비차량도로
标准答案： B

69. 이 표지의 뜻은?

A:비차량도로 통행 금지
B:비차량 주의
C:비차량에 양보
D:비차량도로
标准答案： B

70. 이 표지의 뜻은?

A:감속 서행 구간
B:시공 구간
C:사고 다발 구간
D:정체구간

标准答案： C

71. 이 표지의 뜻은?

A:서행
B:시공 구간
C:차량 많은 구간
D:정체구간
标准答案：A

72. 이 표지의 뜻은?

A:위험 주의
B:시공 구간 우회
C:좌우로 우회
D:2 방향 통행
标准答案： C

73. 이 표지의 뜻은?

A:위험 주의
B:일방통행
C:좌측으로 우회
D:우측으로 우회
标准答案： C

74. 이 표지의 뜻은?

A:좌측으로 우회
B:일방통행
C:위험 주의
D:우측으로 우회
标准答案： D

75. 이 표지의 뜻은?

A:사고 다발 지역
B:감속 서행
C:정체 구간
D:위험 주의
标准答案： D

76. 이 표지의 뜻은?

A:제방겸용도로 구간
B:시공 구간
C:전방 공장
D:도로 체증
标准答案： B

77. 이 표지의 뜻은?

A:최고 속도
B:제안 속도
C:제한 속도
D:최저 속도
标准答案： B

78. 이 표지의 뜻은?

A:터널 감속
B:터널, 차폭등을 켜시오
C:터널 상향 전조등 점등
D:터널, 라이트 켜시오
标准答案： D

乐驾中国CHINA DRIVE 版权所有

79. 이 표지의 뜻은?

A:2 방향 주행 주의
B:양측으로 붙어 주행
C:차선변경선
D:가변차선 주의
标准答案： D

80. 이 표지의 뜻은?

A:차간 거리 유지 주의
B:차간 확인 구간
C:속도측정 구간
D:도로폭 좁아지는 구간
标准答案： A

81. 이 표지의 뜻은?

A:순환 평면 교차로
B:분리식 도로 주의
C:평면 교차로
D:교차 도로 주의
标准答案： B

82. 이 표지의 뜻은?

A:나눠지는 도로 주의
B:합류 도로 주의
C:Y
자형 교차로
D:주도로 양보
标准答案： B

83. 이 표지의 뜻은?

A:갓길
B:자동차 긴급피난 차도
C:급 커브길
D:긴급도로
标准答案：B

84. 이 표지의 종류는?

A:지시표지
B:경고표지
C:금지표지
D:길 안내표지
标准答案： C

85. 금지표지의 역할을 무엇인가?
A:행위 금지 또는 제한
B:방향 정보 알림
C:차량 진행 지시
D:전방 위험 경고
标准答案： A

86. 이 표지의 뜻은?

A:차량 운행 금지
B:장시간 정차 금지
C:정차 후 양보
D:임시 주차 불가
标准答案： C

87. 이 표지의 뜻은?

A:양보금지
B:교행 양보
C:정차 금지
D:감속 양보
标准答案： D

88. 이 표지의 뜻은?

A:교차 운행 시 정차하여 상대 차량을 먼저 보낸다.
B:전방은 2 방향 통행 구간임
C:우측 도로 차량 통행 금지
D:교차 운행 시 정차하여 우측차량을 먼저 보낸다.
标准答案： A

89. 이 표지의 뜻은?

A:통행 금지
B:감속 운행
C:시간 제한적 진입
D:진입 금지
标准答案： A

90. 이 표지의 뜻은?

A:중형버스
B:소형 화물차
C:각종 차량
D:소형차(9 인 이하)
标准答案： D

91. 이 표지의 뜻은?

A:U 턴 금지
B:좌측으로 차선 변경 금지
C:좌회전 차선 진입 금지
D:좌회전 금지
标准答案： D

92. 이 표지의 뜻은?

A:우회전 금지
B:교차로 진입 금지
C:차선 변경 금지
D: U 턴 금지
标准答案： A

93. 이 표지의 뜻은?

A:좌회전 금지
B:직진 금지
C:U 턴금지
D:우회전 금지
标准答案： B

94. 이 표지의 뜻은?

乐驾中国CHINA DRIVE 版权所有

A:좌회전 우회전 금지
B:직진 금지
C:교차로에서 U 턴 금지
D:좌측, 우측으로 차선 변경 금지
标准答案： A

95. 이 표지의 뜻은?

A:직진 및 좌측으로 차선 변경 금지
B:직진 및 좌회전 금지
C:진직 및 좌측으로 차선 변경 가능
D:직진 및 우측으로 차선 변경 가능
标准答案： B

96. 이 표지의 뜻은?

A:진직 및 좌측으로 차선 변경 가능
B:직진 및 우회전 금지
C:직진 및 좌측으로 차선 변경 금지
D:직진 및 좌회전 금지
标准答案： B

97. 이 표지의 뜻은?

A:좌회전 금지
B:차선변경 금지
C:U 턴 금지
D:직진 금지
标准答案： C

98. 이 표지의 뜻은?

A:U 턴 금지
B:추월 금지
C:차선변경 금지
D:반대 차선 점용 금지
标准答案：B

99. 이 표지의 뜻은?

A:반대 차선 점용 금지 해제
B:차선변경 금지 해제
C:추월 금지 해제
D:차선변경 주행 허가
标准答案： C

100. 이 표지의 뜻은?

A:장시간 정차 금지
B:임시 정차 허용
C:정차 금지
D:장시간 정차 허용
标准答案： C

101. 이 표지의 뜻은?

A:임시 정차 금지
B:정차 금지
C:장시간 정차 금지
D:장시간 정차 허용
标准答案： C

102. 이 표지의 뜻은?

A:장시간 경적 울림 금지
B:경적 울림 금지
C:경적 울림 반복 금지
D:감속과 함께 경적 울리기
标准答案： B

103. 이 표지의 뜻은?

A:폭 3 미터 제한 해제
B:높이 3 미터 제한
C:폭 3 미터 예고
D:폭 3 미터 제한
标准答案： D

104. 이 표지의 뜻은?

A: 높이 3.5 미터 제한 해제
B:차간 거리 3.5 미터 제한
C: 높이 3.5 미터 제한
D: 폭 3.5 미터 제한
标准答案： C

105. 이 표지의 뜻은?

A:축중 제한 40 톤
B:전방 40 미터 감속
C:최저 속도 시속 40km
D:최고 속도 시속 40km 제한
标准答案：B

106. 이 표지의 뜻은?

A:40 미터 감속 운행 구간
B: 제한 최저 속도 시속 40km
C:시속 40km 제한 해제
D:최고 속도 시속 40km
标准答案： C

107. 이 표지의 뜻은?

A:출입국 검사
B:통행금지
C:세관 검사
D:정차 검사
标准答案： D

108. 이 표지의 뜻은?

乐驾中国CHINA DRIVE 版权所有

A:세관
B:국경
C:국경수비
D:경계선
标准答案： A

109. 다음은 어떤 표지인가?

A:금지표지
B:경고표지
C:지시표지
D:길안내 표지
标准答案：C

110. 지시표지의 역할을 무엇인가?
A:차량 및 보행자 통행 지시
B:차량 및 보행자 통행 제한
C:전방 위험 경고
D:방향 정보 알림
标准答案： A

111. 이 표지의 뜻은?

A:직진차선
B:직진만 허용
C:일방통행로
D:직진금지
标准答案： B

112. 이 표지의 뜻은?

A:일방통행로
B:좌회전
C:직진차선
D:직진금지
标准答案： B

113. 이 표지의 뜻은?

A:우회전
B:일방통행
C:직진차선
D:직진만 허용
标准答案： A

114. 이 표지의 뜻은?

A:직진과 좌회전
B:직진 및 우회전 금지
C:직진과 우회전
D:좌회전과 우회전만 허용
标准答案： C

115. 이 표지의 뜻은?

A:좌회전과 우회전만 허용
B:직진과 우회전

C:직진과 좌회전
D:직진 및 우회전 금지
标准答案： C

116. 이 표지의 뜻은?

A:좌회전 금지
B:우회전과 좌회전 금지
C:우회전 금지
D:우회전과 좌회전
标准答案： D

117. 이 표지의 뜻은?

A:우측도로로 주행
B:우회전만 허용
C:우측 내리막길 구간
D:도로 우측에 정차
标准答案： A

118. 이 표지의 뜻은?

A:좌측 도로로 주행
B:도로 좌측에 정차
C:좌측 내리막길 구간
D:좌회전만 허용
标准答案： A

119. 이 표지의 뜻은?

A: 직진과 좌회전
B: 직진과 우회전
C: 입체교차로 직진과 우회전
D: 입체교차로 직진과 좌회전
标准答案： D

120. 이 표지의 뜻은?

A: 직진과 좌회전
B: 직진과 우회전
C: 입체교차로 직진과 우회전
D: 입체교차로 직진과 좌회전
标准答案： C

121. 이 표지의 뜻은?

A: 우측통행
B: 좌측통행
C: 우측을 향해 주행
D: 로터리 주행
标准答案： D

122. 이 표지의 뜻은?

A: 직진 일방통행
B: 좌측방통행
C: 좌회전 양보
D: 우측방통행
标准答案： B

乐驾中国CHINA DRIVE 版权所有

123. 이 표지의 뜻은?

A: 우회전 양보
B: 직진 일방통행
C: 좌측일방통행
D: 우측일방통행
标准答案： D

124. 이 표지의 뜻은?

A: 직진이 불가
B: 직진 일방통행
C: 직진 차량 양보
D: 우측으로 붙어서 주행
标准答案： B

125. 이 표지의 뜻은?

A: 저속 주행
B: 보행자 주의
C: 보행자에게 길을 양보
D: 보행
标准答案： D

126. 이 표지의 뜻은?

A: 경적 울림 금지
B: 저음 경적 울림 금지
C: 경적을 울려야함
D: 고음 경적 울림 금지
标准答案： C

127. 이 표지의 뜻은?

A: 학생통로
B: 어린이통로
C: 횡단보도
D: 보행자 주의
标准答案： C

128. 이 표지의 뜻은?

A: 해발고도 50m
B: 최고 제한속도 50km/h
C: 최저 제한 속도 50km/h
D: 수평고도 50m
标准答案： C

129. 이 표지의 뜻은?

A: 간선도로에 양보
B: 양측 모두 큰길
C: 일방통행
D: 정차 후 양보
标准答案： A

130. 이 표지의 뜻은?

A: 반대 차량에 양보
B: 정차 후 양보
C: 일방통행
D: 교차 운행 중인 차량에 양보
标准答案： D

131. 이 표지의 뜻은?

A: U턴 차선
B: 좌회전차선
C: 갈림길
D: 우회전차선
标准答案： D

132. 이 표지의 뜻은?

A: 우회전차선
B: U턴 차선
C: 좌회전차선
D: 갈림길차선
标准答案： C

133. 이 표지의 뜻은?

A: 좌회전차선
B: U턴 차선
C: 우회전차선
D: 직진차선
标准答案：D

134. 이 표지의 뜻은?

A: 직진과 보조도로출구차선
B: 직진 우회전공용차선
C: 갈림길차선
D: 직진과 좌회전차선
标准答案： B

135. 이 표지의 뜻은?

A: 직진 U턴 공용차선
B: 직진 우회전차선
C: 갈림길차선
D: 직진 좌회전공용차선
标准答案：D

136. 이 표지의 뜻은?

A: 우회로차선
B: U턴차선
C: 갈림길차선
D: 좌회전차선
标准答案： B

137. 이 표지의 뜻은?

乐驾中国CHINA DRIVE 版权所有

A: U턴 좌회전공용차선
B: 좌회전과 U턴차선 금지
C: 직진 좌회전공용차선
D: 갈림길차선
标准答案： A

138. 이 표지의 뜻은?

A: 갈림길주행차선
B: 우회전주행차선
C: 직진주행차선
D: 좌회전주행차선
标准答案： A

139. 이 표지의 뜻은?

A: 승합차량 전용차선
B: 간선급행버스시스템전용차선
C: 버스전용차선
D: 대형객차전용차선
标准答案： C

140. 이 표지의 뜻은?

A: 소형차 주행금지
B: 차량주행
C: 소형차만 주행가능
D: 소형차 통행을 허용하지 않음
标准答案： B

141. 이 표지의 뜻은?

A: 자동차전용차선
B: 승합차량전용차선
C: 소형차전용차선
D: 소형차차선
标准答案： A

142. 이 표지의 뜻은?

A: 비차량 주차위치
B: 전동자전거 통행
C: 비차량 주차구역
D: 비차량 통행
标准答案： D

143. 이 표지의 뜻은?

A: 자전거통행금지
B: 자전거전용차선
C: 자전거주차구간
D: 비차량차선
标准答案： D

144. 이 표지의 뜻은?

A: 버스전용차선

B: BRT(간선급행버스시스템)차량전용차선
C: 대형버스전용차선
D: 승합차량전용차선
标准答案： B

145. 이 표지의 뜻은?

A: 승합차량전용차선
B: 소형차전용차선
C: 자동차전용차선
D: 택시전용차선
标准答案： A

146. 이 표지의 뜻은?

A: U 턴
B: 후진
C: 좌회전
D: 우회로
标准答案： A

147. 이 표지의 뜻은?

A: 경고표지
B: 금지표지
C: 지시표지
D: 길 안내표지
标准答案： D

148. 길 안내표지의 역할은?
A: 차량통행제한
B: 제한속도정보 제공
C: 방향정보 제공
D: 전방위험경고
标准答案： C

149. 이 표지의 뜻은?

A: 갈림길 알림
B: 도로구분정보 알림
C: 교차로 알림
D: 차선방향 알림
标准答案： C

150. 이 표지의 뜻은?

A: 도로갈림길 알림
B: 도로구분정보 알림
C: 十자교차로 알림
D: 위치와 거리 알림
标准答案： C

151. 이 표지의 뜻은?

A: Y 형교차로 알림
B: 十자교차로 알림
C: T 자교차로 알림
D: 도로갈림길 알림
标准答案： C

152. 이 표지의 뜻은?

A: 순환교차로 알림
B: 十자교차로 알림
C: T 자교차로 알림
D: Y 형교차로 알림
标准答案： D

乐驾中国CHINA DRIVE 版权所有

153. 이 표지의 뜻은?

A: Y 형교차로 알림
B: 순환교차로 알림
C: 인터체인지 알림
D: 十자교차로 알림
标准答案： B

154. 이 표지의 뜻은?

A: Y 형교차로 알림
B: 十자교차로 알림
C: 순환교차로 알림
D: 인터체인지 알림
标准答案： D

155. 이 표지의 뜻은?

A: 국도번호
B: 성(省)급간선도로번호
C: 현(县)급간선도로번호
D: 향(乡)급간선도로번호
标准答案： A

156. 이 표지의 뜻은?

A: 국도번호
B: 성(省)급간선도로번호
C: 현(县)급간선도로번호
D: 향(乡)급간선도로번호
标准答案： B

157. 이 표지의 뜻은?

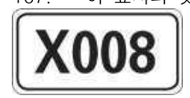

A: 현(县)급간선도로번호
B: 성(省)급간선도로번호
C: 향(乡)급간선도로번호
D: 국도번호
标准答案：A

158. 이 표지의 뜻은?

A: 국도번호
B: 성(省)급간선도로번호
C: 현(县)급간선도로번호
D: 향(乡)급간선도로번호
标准答案：D

159. 이 표지의 뜻은?

A: 종점 이름
B: 주행 노선
C: 주행 방향
D: 이정표
标准答案： D

160. 이 표지의 뜻은?

A: 전용주차장
B: 야외주차장
C: 내부주차장
D: 실내주차장
标准答案： B

161. 이 표지의 뜻은?

A: 실내주차장
B: 내부주차장
C: 전용주차장
D: 야외주차장
标准答案： A

162. 이 표지의 뜻은?

A: 야외주차장
B: 주차 자리
C: 추월양보차선
D: 비상주차지역
标准答案： C

163. 이 표지의 뜻은?

A: 쉼터
B: 전망대
C: 주차위치
D: 주차장
标准答案：B

164. 이 표지의 뜻은?

A: 긴급대피지역
B: 도로 건널목 시설
C: 보행자전용차선
D: 고속도로 휴게소
标准答案： A

165. 이 표지의 뜻은?

A: 주차장
B: 전망대
C: 쉼터
D: 휴게소
标准答案： C

166. 이 표지의 뜻은?

A: 좌회전 금지
B: 통행금지
C: 제한높이 초과차량 우회
D: 길이 막힘
标准答案： C

167. 이 표지의 뜻은?

A: T 자교차로
B: 길이 막힘
C: 갈림길
D: 감속주행
标准答案： B

168. 이 표지의 뜻은?

A: 갓길
B: 차선감소구간
C: 합류구간
D: 좌측으로 차선변경

乐驾中国CHINA DRIVE 版权所有

标准答案： B

169. 이 표지의 뜻은?

A: 우측으로 차선변경
B: 갈림길
C: 차선증가구간
D: 도로폭이 넓어짐
标准答案： C

170. 이 표지의 뜻은?

A: 도로구간 과속카메라단속
B: 도로 유동량 검측
C: 단속카메라구역 감속
D: 교통감시설비
标准答案： D

171. 이 표지의 뜻은?

A: 터널출구거리
B: 터널입구거리
C: 터널안전거리
D: 터널총길이
标准答案： A

172. 이 표지의 뜻은?

A: 회전유도표지
B: 교차로유도표지
C: 합류도로유도표지
D: 안전유도표지
标准答案：D

173. 이 표지의 뜻은?

A: 좌측방통행
B: 우측방통행
C: 통행금지
D: 양측방통행
标准答案： D

174. 이 표지의 뜻은?

A: 우측방통행
B: 좌측방통행
C: 통행금지
D: 양측방통행
标准答案： A

175. 이 표지의 뜻은?

A: 우측방통행
B: 좌측방통행
C: 양측방통행
D: 통행금지
标准答案： B

176. 이 표지의 뜻은?

A: 고속도로 종점 알림
B: 고속도로 입구 알림
C: 고속도로 시작점 알림
D: 고속도로 출구 알림
标准答案： B

177. 이 표지의 뜻은?

A: 고속도로 우측출구 알림
B: 고속도로 다음출구 알림
C: 고속도로 위치, 방향 알림
D: 고속도로 좌측출구 알림
标准答案： C

178. 이 표지의 뜻은?

A: 고속도로 주행방향 알림
B: 고속도로 남은 거리 안내
C: 고속도로 주행노선 알림
D: 고속도로 종점지명 알림
标准答案： B

179. 이 표지의 뜻은?

A: 고속도로구간번호
B: 고속도로노정번호
C: 고속도로이름번호
D: 고속도로경계표지판번호
标准答案： C

180. 이 표지의 뜻은?

A: 고속도로 목적지 알림
B: 고속도로 다음 출구 알림
C: 고속도로 우측 출구 알림
D: 고속도로 좌측 출구 알림
标准答案： B

181. 이 표지의 뜻은?

A: 고속도로 우측 출구 알림
B: 고속도로 목적지 알림
C: 고속도로 좌측 출구 알림
D: 고속도로 다음 출구 알림
标准答案： A

182. 이 표지의 뜻은?

A: 고속도로 다음 출구 알림
B: 고속도로 우측 출구 알림
C: 고속도로 목적지 알림
D: 고속도로 좌측 출구 알림
标准答案： D

183. 이 표지의 뜻은?

A: 고속도로 출구
B: 고속도로 입구

乐驾中国CHINA DRIVE 版权所有

C: 고속도로 시작점
D: 고속도로 종점
标准答案： C

184. 이 표지의 뜻은?

A: 고속도로 시작점 알림
B: 고속도로 출구 알림
C: 고속도로 입구 알림
D: 고속도로 종점 알림
标准答案： D

185. 이 표지의 뜻은 ?

A: 고속도로 서비스번호
B: 고속도로 교통방송주파수
C: 고속도로 긴급구조번호
D: 고속도로 경찰신고번호
标准答案： B

186. 이 표지의 뜻은?

A: ETC(전자징수시스템)도로
B: 톨게이트비 납부
C: 톨게이트 통행증 수령
D: 검문
标准答案： C

187. 이 표지의 뜻은?

A: 고속도로 통행증 수령처
B: 고속도로 톨게이트
C: 고속도로 검문소
D: ETC(전자징수시스템)없는 톨게이트
标准答案： D

188. 이 표지의 뜻은?

A: 고속도로 검문차선
B: 고속도로 ETC 차선
C: 고속도로 톨게이트차선
D: 고속도로 통행증수령차선
标准答案： B

189. 이 표지의 뜻은?

A: 악천후시고속도로 최고속도
B: 악천후시고속도로 제안속도
C: 악천후시고속도로 최저속도
D: 악천후시고속도로 평균속도
标准答案： B

190. 이 표지의 뜻은?

A: 고속도로 신고전화
B: 고속도로 긴급구조전화
C: 고속도로 공중전화
D: 고속도로 비상전화
标准答案： D

191. 이 표지의 뜻은?

A: 고속도로 긴급구조전화
B: 고속도로 비상전화
C: 고속도로 신고전화
D: 고속도로 공중전화
标准答案： A

192. 이 표지의 뜻은?

A: 고속도로 비상주차대
B: 고속도로
C: 고속도로 피난소
D: 고속도로 정차구역
标准答案： A

193. 이 표지의 뜻은?

A: 고속도로 여객터미널
B: 고속도로 휴게소
C: 고속도로 쉼터
D: 고속도로 주유소
标准答案： D

194. 이 표지의 뜻은?

A: 고속도로 피난소 알림
B: 고속도로 톨게이트 알림
C: 고속도로 여객터미널 알림
D: 고속도로 휴게소 알림
标准答案：D

195. 이 표지의 뜻은?

A: 고속도로 정차구역 알림
B: 고속도로 주차장 알림
C: 고속도로 피난소 알림
D: 고속도로 휴게소 알림
标准答案： A

196. 이 표지의 뜻은?

A: 고속도로 휴게소 알림
B: 고속도로 여객터미널 알림
C: 고속도로 주차장 알림
D: 고속도로 피난소 알림
标准答案： C

197. 다음 중 그림에 속하는 표지판은?

A: 관광지 표지판

乐驾中国CHINA DRIVE 版权所有

B: 고속도로표지판
C: 작업구역 표지판
D: 알림표지판
标准答案： A

198. 이 표지의 뜻은?

A: 관광지 기호
B: 관광지 유형
C: 관광지 거리
D: 관광지 방향
标准答案： C

199. 이 표지의 뜻은?

A: 관광지 기호
B: 관광지 유형
C: 관광지 거리
D: 관광지 방향
标准答案： D

200. 도로 한가운데의 황색점선이 나타내는 표시선은?

A: 경고표시선
B: 금지표시선
C: 지시표시선
D: 보조표시선
标准答案： C

201. 지시표시선의 역할은 무엇인가?
A: 통행제한
B: 통행경고
C: 통행금지
D: 통행지시
标准答案： D

202. 도로 위의 흰색점선이 나타내는 표시선은?

A: 반대 차선 침범금지 중앙선
B: 반대 차선 침범제한 중앙선
C: 추월 가능 중심선
D: 일방통행 차량들의 중앙선
标准答案： C

203. 도로 위의황색분계선의 역할은?



A: 반대편 주행 차량구분
B: 동일방향주행차량 구분시킴
C: 좌측 차선주행허용
D: 반대편차선 침범금지
标准答案： A

204. 도로 위의 황색 복선 점선이 나타내는 것은?

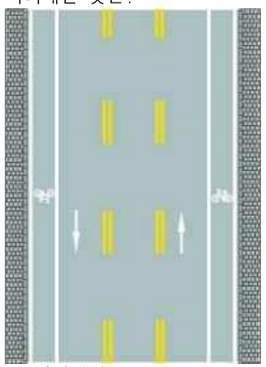

A: 가변차선
B: 2 방향경계선
C: 일방통행경계선
D: 크로스 라인경계선
标准答案： A

205. 도로 양측 가장자리의 흰색 실선이 나타내는 것은?

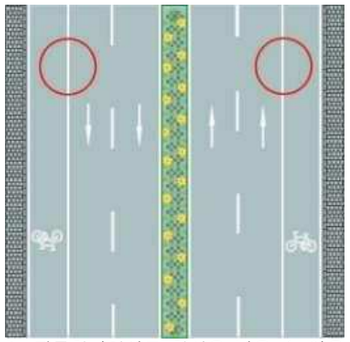

A: 자동차가임시로 차선을 넘을 수 있음
B: 비차량이임시차선을넘을 수 있음
C: 차량이임시차선을 넘을 수 있음
D: 차량이 넘을 수 있음
标准答案： D

206. 도로 우측차선 가장자리의 흰색 점선이 나타내는 것은?

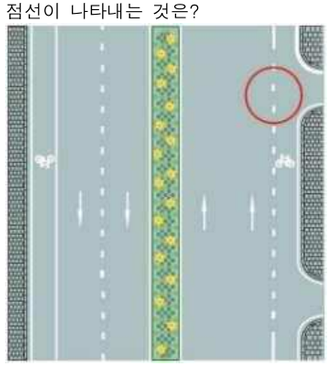

A: 횡단보도 분계선
B: 긴급차로 분계선
C: 차선을 넘을 수 없음
D: 임시로 차선을 넘을 수 있음
标准答案： D

207. 다음 중 원안에 있는 흰색 쌍점선과 같은 것은?

A: 좌회전대기구역선
B: 소형차회전선
C: 유턴유도선
D: 교차로정차선
标准答案： A

208. 다음 중 원안에 있는 흰색 점선과 같은 것은?

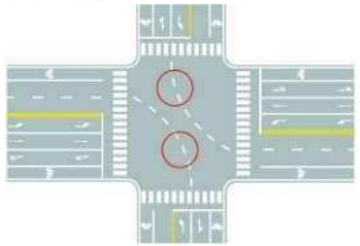

A: 교차로 유도선
B: 차로연계선
C: 비차량 유도선
D: 소형차회전선
标准答案： A

209. 다음 중 원안에 있는 황색 점선과 같은 것은?

A: 교차로 유도선
B: 비차량 인도선
C: 차로연계선
D: 소형차회전선
标准答案： A

210. 다음 중 원안에 있는 흰색 실선과 같은 것은?

乐驾中国CHINA DRIVE 版权所有

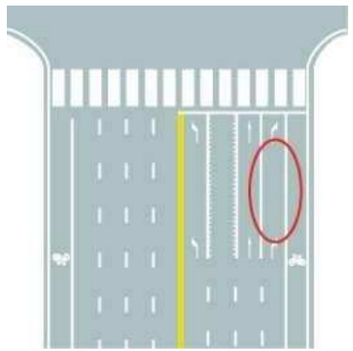

A: 차로유도선
B: 방향유도선
C: 일방통행선
D: 진로변경유도선
标准答案： A

211. 다음 중 원안에 있는 톱니형 흰색 실선과 같은 것은?

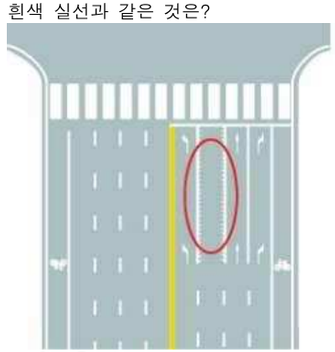

A: 차로유도선
B: 방향유도선
C: 진로변경유도선
D: 일방통행선
标准答案： C

212. 다음 중 원안에 있는 노면표시선과 같은 것은?

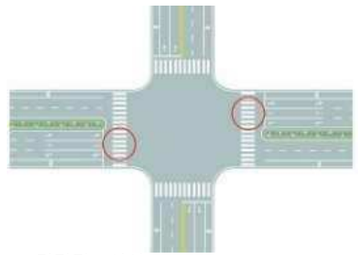

A: 갈림길표시선
B: 정차 후 양보 표시선
C: 감속 후 양보 표시선
D: 횡단보도표시선
标准答案： D

213. 아래의 图에 부합되는 표시선은?

A: 횡단보도 알림
B: 교차로 알림
C: 감속 후 양보 알림
D: 정차 후 양보 알림
标准答案： A

214. 그림에서 백색 꺽인선은 무슨 표시인가?

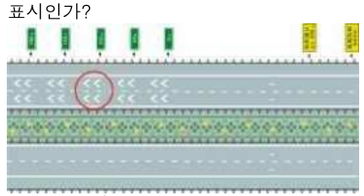

A:교차로 감속선
B:속도 확인선
C:차간 거리 확인선
D:감속 주행선
标准答案： C

215. 그림 중 백색의 반원형태 표기는 무슨 선 표시인가?

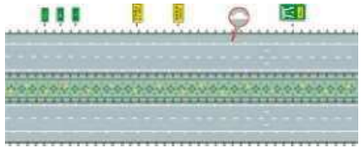

A:감속 주행선
B:속도 확인선
C:교차로 감속선
D:차간 거리 확인선
标准答案： D

216. 노면에 백색 점선과 삼각지대 표시선으로 이루어진 것은 무슨 표시인가?

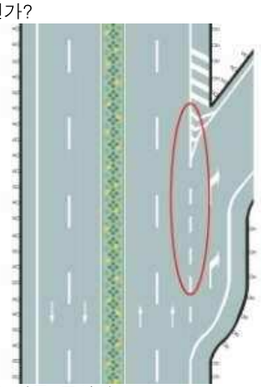

A:도로 입구 표시선
B:진로변경 가능 차선
C:도로 출구 감속선
D:도로 출구 표시선
标准答案： D

217. 도로상 백색 점선과 삼각지대 표시선으로 이루어진 것은 무슨 선인가?

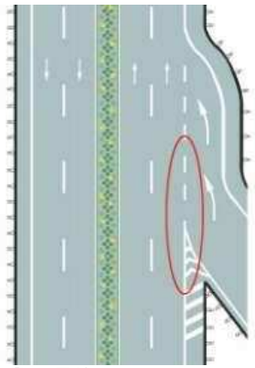

A:도로 출구 표시
B:추월 가능 차선 경계선
C:도로 입구 감속선
D:도로 입구 표시선
标准答案： D

218. 백색 정방형 표시선은 무엇을 뜻하는가?

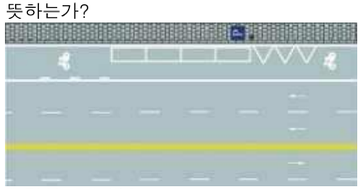

A:경사주차 위치
B:평행주차 위치
C:승객 승하차 전용 택시 정차 구역
D:직각주차 위치
标准答案： B

219. 이 정차 표시선의 의미는?

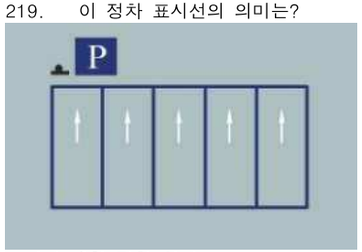

A:시간 제한 정차 위치
B:고객 기다림 전용 정차 위치
C:승객 승하자 전용 정차 위치
D:주차방향 고정 정차 위치
标准答案： D

乐驾中国CHINA DRIVE 版权所有

220. 백색 정방형선의 의미는?

A:장시간 정차 위치
B:시간 제한적 정차 위치
C:전용 정차 위치
D:무료 정차 위치
标准答案： B

221. 적색 동그라미 안 표시선의 의미는?

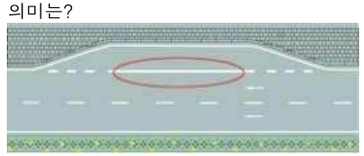

A:임시 정차 구역
B:버스 베이(보도측으로 들어간) 정류장
C:긴급 주정차 지역
D:버스 정차구역
标准答案： B

222. 적색 동그라미 안 표시선의 의미는?

A:대형 버스 주정차 구역
B:버스 정차 구역
C:임시 정차 구역
D:긴급 주정차 지역
标准答案： B

223. 이 방향 화살표의 의미는?

A:차도 알림
B:통행 금지 지시
C:합류 알림
D:직진 지시
标准答案： D

224. 이 방향 화살표의 의미는?

A:직진 혹은 좌측으로 차선 변경
B:직진 혹은 U턴
C:좌회전 혹은 U턴
D:직진 혹은 좌회전
标准答案： D

225. 이 방향 화살표의 의미는?

A: 우회전 혹은 U턴
B: 직진 혹은 좌측으로 차선 변경
C: 직진 혹은 우회전
D: 직진 혹은 U턴
标准答案： C

226. 이 방향 화살표의 의미는?

A: 전방 우회전
B: 좌측으로 차선 변경
C: 전방 직진
D: 전방 좌회전
标准答案： D

227. 이 방향 화살표의 의미는?

A: 전방우회전
B: 전방 U턴
C: 전방 직진
D: 좌측으로 차선 변경
标准答案： A

228. 이 방향 화살표의 의미는?

A: 전방 U턴
B: 좌측으로 차선 변경
C: 전방 직진
D: 전방 우회전
标准答案： A

229. 이 방향 화살표의 의미는?

A:전방 좌회전 및 U턴 허용
B:전방 직진 혹은 U턴 허용
C:전방 직진 혹은 좌회전 허용
D:전방 직진, 좌측 차선 변경
标准答案： B

230. 이 방향 화살표의 의미는?

A: 전방 좌회전 혹은 U턴 허용
B: 전방 직진, 좌측 차선 변경
C: 전방 직진 혹은 좌회전 허용
D: 전방 직진 혹은 U턴 허용
标准答案： A

231. 이 방향 화살표의 의미는?

A: 전방 좌회전 혹은 좌측으로 합류해야 함
B: 전방 좌회전 혹은 좌측으로 우회
C: 전방 우측에 장애물이 있어 좌측으로 합류해야 함
D: 전방 우회전 혹은 우측으로 합류해야 함
标准答案：A

232. 노면의 이 방향 화살표의 의미는?

A: 전방 좌회전 혹은 좌측으로 합류
B: 전방 좌회전 혹은 좌측으로 우회
C: 전방 우회전 혹은 우측으로 합류
D: 전방 우측 장애물, 좌측으로 합류
标准答案： C

233. 노면의 이 방향 화살표의 의미는?

A:전방Y형 교차로
B:전방 분리식 도로
C:전방 좌회전과 우회전만 가능
D:전방 좌우로 합류
标准答案： C

234. 노면의 숫자 표기는 무슨 뜻인가?

A: 최소 간격 표시
B: 속도 제한 표시
C: 차간 거리 유지
D: 도로 번호
标准答案： B

235. 노면의 표기는 무슨 뜻인가?

A: 제한 최고속도 시속 100km
B:평균 시속 100km
C:시속 100km 제한 해제
D:제한 최저속도 시속 100km
标准答案： A

236. 노면의 표기는 무슨 뜻인가?

A:평균 시속 80km
B:제한 최고속도 시속 80km
C:제한 최저속도 시속 80km
D:시속 80km 제한 해제
标准答案： C

237. 노면 표기는 무슨 뜻인가?

A: 오토바이 전용도로
B: 자전거 전용도로
C: 비차량 도로
D: 전동차 전용도로
标准答案： C

238. 도로 중간의 황색 복선 실선은 어떤 표시인가?

A:지시 표시선
B:경고 표시선
C:보조 표시선
D:금지 표시선
标准答案： D

239. 도로 중간의 황색 복선 실선은 어떤 표시인가?

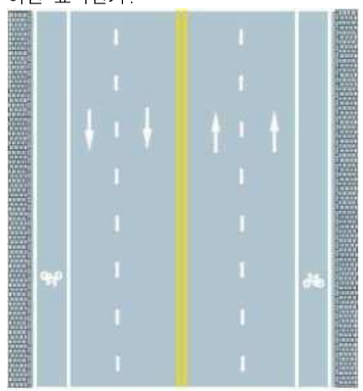

A:추월 가능 차선 경계선
B:반대 차선으로 넘어갈 수 있는 차선 경계선
C:반대 차선으로 넘어가는 것을 금지하는 차선 경계선
D:일방통행 차선 경계선
标准答案： C

240. 이 중앙선의 의미는?

A:점선 쪽은 차선을 넘을 수 없음
B:실선 쪽 차선을 넘을 수 있음
C:실선 쪽은 차선을 넘을 수 없음
D:양측 모두 차선을 넘어 주행할 수 있음
标准答案：C

241. 도로 중간의 황색 사선으로 채워진 부분의 의미는?

乐驾中国CHINA DRIVE 版权所有

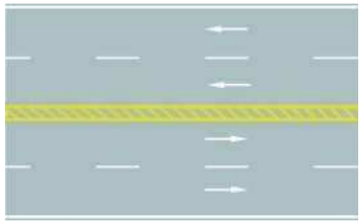

A:일방통행 차선 경계선
B:반대 차선으로 넘어가는 것을 금지하는 차선 경계선
C:반대 차선으로 넘어갈 수 있는 차선 경계선
D:양측에서 같은 차선으로 넘어갈 수 있는 차선 경계선
标准答案： B

242. 도로 가운데의 백색 실선의 의미는?



A:반대차선으로 넘어갈 수 없는 차선 경계선
B:한 쪽이 차선을 넘을 수 있는 차선 경계선
C:주행 중 추월 금지 차선 경계선
D:양측에서 같은 차선으로 넘어갈 수 있는 차선 경계선
标准答案： C

243. 도로경계석 위의 황색 점선의 의미는?

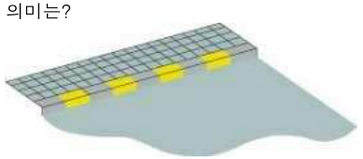

A:임시정차 금지
B:화물 하역 금지
C:장시간 정차 금지
D:승하차 금지
标准答案： C

244. 도로경계석 위의 황색 점선의 의미는?

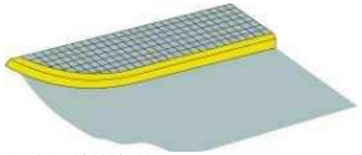

A:화물 하역만 허용
B:승하차만 허용
C:정차 금지
D:장시간 정차 금지
标准答案： C

245. 다음 그림에서 동그라미 안 백색 가로 실선의 의미는?

A:정지선
B:양보 표시선
C:감속 표시선
D:회전 대기선
标准答案： A

246. 교차로 가장 앞부분의 두 줄 백색 실선의 의미는?

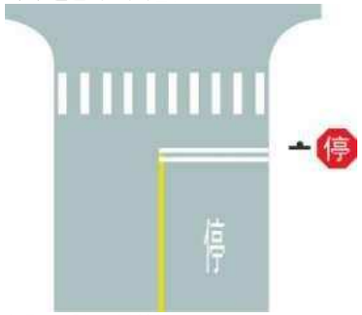

A:정차 양보 표시선
B:감속 양보 표시선
C:좌회전 대기선
D:통과 대기선
标准答案： A

247. 교차로 가장 앞부분의 복선 백색 실선의 의미는?

乐驾中国CHINA DRIVE 版权所有

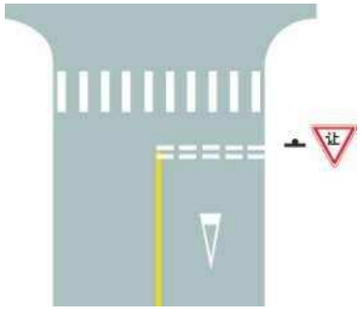

A:통과 대기선
B:정차 양보 표시선
C:감속 양보 표시선
D:좌회전 대기선
标准答案： C

248. 다음 그림에서 동그라미 안 삼각형으로 채워진 부분은 어떤 표시선인가?

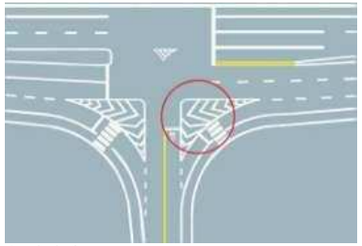

A:정차선
B:정차금지지대
C:유도선
D:감속선
标准答案： C

249. 다음 도로 노면 표기의 의미는?

A:주행 금지 구역
B:정차금지지대
C:유도선
D:유도
标准答案： D

250. 다음 도로 노면 표기의 의미는?

A:정차금지지대
B:유도
C:주행 금지 구역
D:유도선
标准答案： B

251. 그림에서 교차로 중앙의 황색 노면 표기의 의미는?

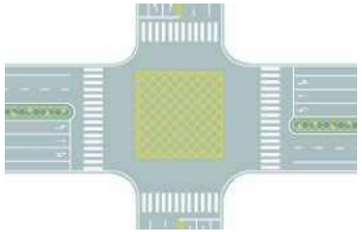

A:유도
B:유도선
C:정차금지지대
D:정차구역
标准答案： C

252. 다음 그림에서 동그라미 안의 황색 복선 점선 구역의 의미는?

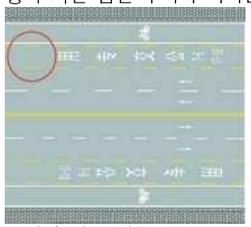

A:영업 버스 전용도로
B:일반 버스 전용도로
C:택시 전용도로
D:대형버스 전용도로
标准答案： B

253. 도로 가장 좌측의 백색 점선 구역의 의미는?

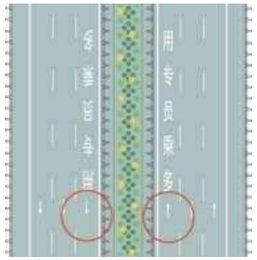

A:다인승차량 전용도로
B:승용차 전용도로
C:빈 택시 전용도로
D:대형 버스 전용도로
标准答案： A

254. 노면의 황색 표기의 의미는?

A:회전 금지
B:U 턴 금지
C:U 턴 허용
D:직진금지
标准答案： B

255. 노면의 황색 표기의 의미는?

A:좌회전 금지
B:U 턴 금지
C:우회전 금지
D:직진 금지
标准答案： C

256. 노면의 백색 표시선의 의미는?

A:차도 횡방향 감속 표시선
B:도로 시공 알림
C:차도 종방향 감속 표시선
D:차도 줄어듬
标准答案： A

257. 노면의 황색 표시선의 의미는?

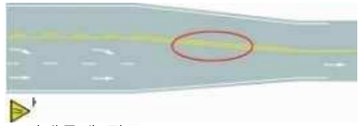

A:장애물에 접근
B:시공 구간 표시
C:차선 늘어남
D:도로 폭 점점 변화됨
标准答案：D

258. 노면의 황색으로 채워진 표시선의 의미는?



A:이동 장애물에 접근
B:분리지역 확대
C:장애물에 접근
D:좁은 도로로 접근
标准答案：C

259. 노랑색과 검은색이 엇갈려 있는 비스듬한 선은 무슨 표기인가?

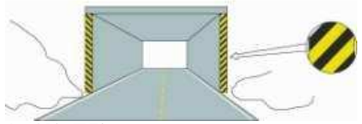

A:실체 표기
B:감속 표기
C:차도 혹은 주변 입체면 표기
D:돌발상황 표기
标准答案： C

260. 노면의 마름모꼴 점선의 의미는?

乐驾中国CHINA DRIVE 版权所有

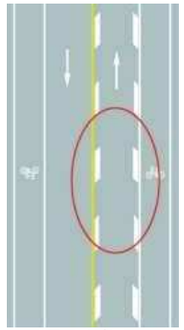

A:차도 줄어듬
B:차도 횡방향 감속 표시선
C:도로 시공 알림
D:차도 종방향 감속 표시선
标准答案： B

261. 다음 교통경찰관의 수신호는 무슨 의미인가?

A:좌회전 신호
B:정지신호
C:길가 정차 신호
D:우회전 신호
标准答案： B

262. 다음은 무슨 의미인가?

A:길가 정차 신호
B:직진신호
C:회전신호
D:정지신호
标准答案：B

263. 교통경찰의 수신호는 무슨 의미인가?

A:길가 정차 신호
B:우회전 신호
C:좌회전 대기 신호
D:좌회전 신호
标准答案： D

264. 교통경찰의 수신호는 무슨 의미인가?

A:길가 정차 신호
B:좌회전 대기 신호
C:감속 서행 신호
D:좌회전 신호
标准答案： D

265. 다음 교통경찰의 수신호의 의미는?

A:좌회전 신호
B:우회전 신호

C:감속 서행 신호
D:좌회전 대기 신호
标准答案： D

266. 다음 교통경찰의 수신호의 의미는?

A:우회전 신호
B:정지 신호
C:감속 서행 신호
D:길가 정차 신호
标准答案： A

267. 다음 교통경찰의 수신호의 의미는?

A:우회전 신호
B:좌회전 대기 신호
C:길가 정차 신호
D:감속 서행 신호
标准答案： A

268. 다음 교통경찰의 수신호의 의미는?

A:우회전 신호
B:감속 서행 신호
C:길가 정차 신호
D:차선 변경 신호
标准答案： D

269. 다음 교통경찰의 수신호의 의미는?

A:차선변경 신호
B:길가 정차 신호
C:우회전 신호
D:감속 서행 신호
标准答案： D

3、안전운행과 문명운전 지식

安全行车、文明驾驶知识（187 题）

1. 우천 시 안전 주행에 중요한 영향을 주는 요소는?
A:쉽게 꺼지는 엔진
B:미끄러운 노면, 시야 확보 장애
C:주행 저항력 증가
D:습기로 인한 전기설비의 합선

乐驾中国CHINA DRIVE 版权所有

标准答案： B

2. 비 온 뒤 노면이 미끄러운 상황에서 주행 중 제동 시 어떤 일이 야기될 수 있는가?
A:엔진 꺼짐
B:다른 차량 운전자가 잘 알아채지 못함
C:시야가 잘 안 보여 추돌 사고 야기
D:옆으로 미끄러지며 교통사고 야기
标准答案： D

3. 안개 낀 날 안전 주행에 가장 영향을 주는 요소는?
A:가시거리가 좁아 잘 안 보임
B:주행 저항력 증가
C:쉽게 미끄러짐
D:엔진 꺼짐
标准答案： A

4. 도로에서 보행자의 중요한 특징은?
A:행동이 느림
B:모여서 구경하기 좋아함
C:안정성이 떨어짐
D:마음대로 방향을 바꾸어 보행함
标准答案： D

5. 야간 주행에서 안전에 영향을 주는 중요한 요소는?
A:노면이 복잡하고 다양하게 변함
B:운전자 체력 저하
C:가시거리가 좁아 도로 교통상황 관찰에 불리
D:운전자가 쉽게 흥분하고 환각에 빠짐
标准答案： C

6. 운전자는 야간에는 주간보다 물체를 잘 구별하지 못한다. 가시거리에는 어떤 변화가 생기는가?
A:늘어난다.
B:줄어든다.
C:변화 없다.
D:대중없다
标准答案： B

7. 눈,빙판길은 안전 주행에 주로 어떤 영향을 주는가?
A:습기로 인한 전기설비의 합선
B:가시거리 줄어 시야 흐려짐
C:주행 저항력 증가
D:제동력이 떨어져 쉽게 방향이 엇나갈 수 있음
标准答案： D

8. 눈,빙판길에서 주행 시 주의할 점은?
A:제동력 변화 없음
B:제동거리 연장
C:노면 부착력 증가
D:미끄럼 방지능력 확대
标准答案： A

9. 진흙탕 길에서의 안전 주행에 영향을 주는 요소는?
A:노면 부착력 증가
B:주행 저항력 저하
C:가시거리 저하로 시야 불분명
D:바퀴가 쉽게 미끄러지고, 옆으로 밀림
标准答案： D

10. 침수된 노면에서 차량 주행을 해서는 안 되는 이유는?
A:웅덩이와 돌출된 노면을 관찰 할 수 없기 때문
B:노면 부착력이 증가하기 때문
C:가시거리 저하로 시야가 불분명하기 때문
D:태양 반사로 시야에 영향을 주기 때문
标准答案： A

11. 산간 지역 도로가 안전 주행에 어떤 영향을 주는가?
A:비탈길과 급경사로 가시거리가 좁다
B:교통상황이 같다
C:차량 행렬이 많다
D:도로 표지가 적다
标准答案： A

12. 주행 중 반대 차선 차량이 추월을 감행하며 나의 주행 도로를 점용했을 경우 취해야 하는 옳은 방법은?
A:최대한 속도를 낮추어 양보한다.
B:원래 주행 속도를 유지한다.
C:길을 막는다.
D:가속 주행한다
标准答案： A

13. 야간 주행 시 운전자는 가시거리가 짧아 주위를 관찰하는데 영향을 받을 뿐 아니라 고도의 주의력을 요구하기 때문에 쉽게 피로해질 수 있다.
标准答案：Y

14. 눈, 빙판길 주행 시 쌓인 눈이 빛에

반사되어 운전자의 눈을 부시게 해, 쉽게 착각을 일으킬 수 있다.
标准答案： Y

15. 눈, 빙판길 주행 시 차량의 안정성의 떨어져 가속할 경우 차 바퀴가 쉽게 공회전을 하거나 밀릴 수 있다.
标准答案： Y

16. 진흙탕 길 제동 시, 차 바퀴가 옆으로 미끄러지거나 흙이 튀어 교통사고를 야기한다.
标准答案： Y

17. 침수 도로 주행 시 반드시 고속 기어로 빠르게 통과해야 한다.
标准答案： N

18. 주행 중 반대 차선 차량이 갑자기 추월을 감행해 자신이 주행하고 있는 차도로 들어왔을 때 양보하지 않고, 상대가 피하도록 한다.
标准答案： N

19. 주행 중 전방에 교통사고가 나 도움이 필요할 경우 어떻게 해야 하나?
A:최대한 빨리 우회해 숨는다
B:즉시 신고하고, 정차해 기다린다
C:현장 보호를 돕고, 즉시 경찰에 신고한다.
D:속도를 높여 통과하고, 신경 쓰지 않는다.
标准答案： C

20. 주행 중 교통사고 부상자를 도와야 할 상황에 부딪히면 어떻게 해야 하는가?
A:즉시 부상자를 병원으로 호송하거나 구조 전화를 한다.
B:재빨리 자리를 떠나 귀찮은 것을 피한다.
C:구실을 찾아서 현장을 피한다.
D:현장을 우회해서 간다.
标准答案： A

21. 반대 차선 차량이 내가 주행하고 있는 도로를 점용했을 경우 어떻게 해야 하나?
A:상대방에게 상향등을 사용해 경고한다.
B:도로 가운데로 붙어 주행한다.
C:상대를 피해서 우측으로 붙어 주행한다.
D:자발적으로 상대방에게 양보한다.
标准答案： D

22. 주행시 전방 도로가 막힐 경우 어떻게 해야 하나?
A:속도를 줄이고 정차해 순서를 기다린다.
B:경적을 울린다.
C:앞 차를 추월할 기회를 찾는다.
D:차량 빈 곳으로 끼어들어 통과한다.
标准答案：A

23. 교차로에서 상대방 차량이 부득이하게 나의 차선을 이용해야 할 경우 어떻게 하나?
A:우측으로 붙어 가속해 지나간다.
B:상대가 먼저 지나가도록 최대한 양보한다.
C:상대방의 도로를 침범하지 않고 정상적으로 달린다.
D:상대방이 정차하고 양보하도록 한다.
标准答案：B

24. 주행 중 따라오던 차량이 추월할 의사를 보였을 때 어떻게 해야 하는가?
A:즉시 감속하고, 주위를 살핀 후 오른쪽으로 비켜 지나가도록 한다.
B:오른쪽으로 붙어 가속 주행한다.
C:양보하지 않는다.
D:기존의 주행 속도를 유지한다.
标准答案： A

25. 추월하려고 하는데 앞차가 감속과 양보를 하지 않을 때 어떻게 해냐 하는가?
A:경적을 울리며 속도를 높여 추월한다.
B:속도를 높여 추월한다.
C:추월하지 않는다.
D:뒤를 바짝 따라가며 추월할 기회를 노린다.
标准答案： C

26. 주행 중 물이 고인 노면을 지날 경우 운전자는 어떻게 해야 하는가?
A:특별히 주의를 기울이며 감속 서행한다.
B:신속하게 속도를 높여 통과한다.
C:정상 속도를 유지하며 통과한다.
D:저속 기어로 빠른 속도로 통과한다.
标准答案： A

乐驾中国CHINA DRIVE 版权所有

27. 전방 도로 정체를 발견했을 경우 옳은 방법은?
A:계속 끼어들면서 우회한다.
B:빈 곳을 찾아 끼어들어 추월한다.
C:전방 차량들에게 빨리 달리도록 경적을 울린다.
D:자신이 지나갈 순서를 차례대로 기다린다.
标准答案： D

28. 정체 구간에서 저속 운행 중 다른 차량이 끼어들기를 하려고 할 경우 어떻게 해야 하나?
A:자발적으로 양보해 안전 거리를 확보한다.
B:끼어들려는 차를 밀어내 떠나게 한다.
C:속도를 높여 앞차에 바짝 붙어 들어오지 못하도록 한다.
D:경적을 울리며 들어오지 못하게 한다.
标准答案： A

29. 양측에 물이 고여있는 도로를 지날 때 보행자가 있는 경우 어떻게 해야 하는가?
A:속도를 높여 통과한다.
B:정상적으로 주행한다.
C:감속 서행한다.
D:경적을 계속 울린다.
标准答案： C

30. 양측에 물이 고여있는 도로를 지날 때 비차량이 있는 경우 어떻게 해야 하는가?
A:정상적으로 주행한다.
B: 속도를 높여 통과한다.
C:경적을 계속 울린다.
D: 감속 서행한다.
标准答案： D

31. 훌륭한 운전자는 능숙한 운전 기술 뿐 아니라 좋은 운전 습관과 도덕적인 수양을 가져야 한다.
标准答案： Y

32. 반드시 규정된 안전 속도에 따라 주행해야 한다.
标准答案： Y

33. 운전하면서 전화를 받는 것은 위법행위이다.
标准答案： Y

34. 추월 시 반드시 거리를 넓히고, 필요할 경우 실선에서도 추월할 수 있다.
标准答案： N

35. 운전 시 앞차와의 거리유지 보다는 앞차와 비슷한 속도를 유지하면 추돌사고를 방지할 수 있다.
标准答案： N

36. 주의력집중, 자세히 살피기, 사전 예방은 안전 운전의 3 대 원칙이다.
标准答案： Y

37. 도로상황이 복잡할 때 3 분기다리는 것이 1 초다투는 것보다 낫다.
标准答案： Y

38. 운전자는 주행 중에 양보 운전을 하고 운전 예절을 지켜야 하며 위험운전이나 난폭운전 및 고장 차량을 운전해서는 안된다.
标准答案： Y

39. 주행 중 후방에서 오는 차량이 없다면 방향지시등을 켜지 않고 차선변경이 가능하다.
标准答案： N

40. 여성 운전자가 하이힐을 신고 운전을 하면 안전운전에 영향을 준다
标准答案： Y

41. 3운전 중 장시간 왼쪽 어깨를 창문에 올려 놓거나 오른손으로 변속 레버를 계속 잡고 있는 것은 잘못된 운전 습관이다.
标准答案： Y

42. 주행 중 운전자의 흡연은 안전운전에 아무런 영향을 주지 않는다.
标准答案： N

43. 좁은 구간을 교차 운행 할 경우 반대편 차량보다 느리게 운행하고 먼저 양보를 하거나 정차해야 한다.
标准答案： Y

44. 주행 중 전방 장애물을 우회해야 하는 경우, 마주오는 차량이 장애물에 근접했다면 운전자가 취해야 할 조치는?

A: 경적을 울려 반대편 차량이 양보하게끔 한다
B: 먼저 차선을 점용해서 반대편 차량이 정차해서 양보하게끔 한다
C: 가속하여 서둘러 통행한다
D: 감속하거나 정차하여 반대편 차량이 먼저 통행하게 해야 한다
标准答案：D

45. 교차로에서 차선변경을 할 때 운전자가 취해야 할 조치는?
A: 교차로 전 실선 구역에 진입
B: 점선 구역 내의 화살표유도표시에 따른다
C: 교차로 실선구역에 진입
D: 교차로 정지선에 멈춘다
标准答案：B

46. 횡단보도를 지날 때 운전자가 취해야 할 조치는?
A: 즉시 정차
B: 경적을 울려 보행자가 양보하게끔 한다
C: 가속통과
D: 주행 속도를 줄인 다음 보행자나 비차량 움직임을 살핀 후 통행
标准答案： D

47. 길가 임시 정차 후 다시 출발할 경우, 운전자가 취해야 할 조치는?
A: RPM 을 높임
B: 경적을 울림
C: 주위 교통상황을 살핌
D: 기름을 넣고 주행을 시작
标准答案： C

48. 주행 시 녹색 신호가 켜졌으나 횡단보도에 보행자가 있다면 운전자가 취해야 할 조치는?
A: 그냥 통과한다
B: 보행자 뒤쪽으로 돌아간다
C: 보행자 앞쪽으로 돌아간다
D: 보행자가 지나간 다음 출발한다
标准答案： D

49. 도로에서 후진시 지나가는 차량이 있을 경우 운전자가 취해야 할 조치는?
A: 그냥 후진한다
B: 경적을 울려 알린다
C: 정차한 후 양보한다
D: 가속으로 후진한다
标准答案： C

50. 교차운행 시 위치가 적절하지 않을 경우 운전자가 취해야 할 조치는?
A: 가속하여 적절한 위치를 찾는다
B: 감속주행, 저속교차운행 또는 정차 후 양보한다
C: 좌측 차선 점용 후 상대방 차량이 양보하게끔 한다
D: 전조등을 켜서 상대방 차량이 양보하게끔 한다
标准答案： B

51. 좌측 차선으로 추월 시 정상 주행 중인 앞차와의 가로폭 안전거리가 확보되지 않을 때 운전자가 취해야 할 조치는?
A: 나란히 일정한 거리를 주행 후 추월한다
B: 가속하여 추월한다
C: 추월하지 않는다
D: 조심성있게 추월한다
标准答案： C

52. 다른 차량에게 추월 당했을 경우 운전자가 취해야 할 조치는?
A: 계속 가속주행을 한다
B: 감속 또는 우측으로 붙어서 주행한다
C: 도로중간으로 주행한다
D: 가속 후 양보한다
标准答案： B

53. 뒤 차가 추월신호를 봤을 때 운전자가 취해야 할 조치는?
A: 감속주행 또는 급제동 한다
B: 일정한 공간을 남겨준 후 계속 가속주행한다
C: 자발적으로 감속 후 우측으로 주행한다
D: 도로 우측으로 가속 주행한다
标准答案： C

54. 급커브 도로에서 운전자가 취해야 할 조치는?
A: 급제동 후 저속 운행한다
B: 충분히 감속한 후 우측으로 붙어 주행한다
C: 반대편 차선을 점용해 주행한다
D: 커브 길 바깥 쪽으로 주행한다
标准答案： B

乐驾中国CHINA DRIVE 版权所有

55. 산간도로의 커브 길 진입 전 맞은편 차량이 없을 경우 운전자가 취해야 할 조치는 ?
A: 감속주행 또는 경적을 울리거나 우측으로 붙어 주행해야 한다
B: 커브 길 바깥 쪽에 붙어서 주행한다
C: 반대편차선을 잠깐 빌린다
D: 커브 길 접선 방향을 따라 가속 주행한다
标准答案： A

56. 정체 교차로에서 녹색신호가 켜졌을 때 운전자가 취해야 할 조치는?
A: 교차로에 진입하지 못한다
B: 반대 차선으로 진입한다
C: 그냥 교차로에 진입한다
D: 안전을 확인한 뒤 교차로에 진입한다
标准答案： A

57. 주행 중 무인경비 철로 건널목을 지날 때 운전자가 취해야 할 조치는?
A: 감속주행
B: 정차 후 주위를 살핀 후 주행한다
C: 가속주행
D: 등속주행
标准答案： B

58. 철로 건널목 진입 전에는 저속기어를 넣어 감속해야 한다. 건널목 진입 후 운전자가 취해야 할 조치는?
A: 기어를 바꾸지 않는다
B: 정차 후 주위를 살핀다
C: 고속기어로 바꾼다
D: 기어를 바꾼다
标准答案： A

59. 길 가에 정차한 차량을 추월할 때 정차 차량이 갑자기 출발하거나 차문을 열 경우에 대비해 운전자가 취해야 할 조치는?
A: 가로 안전거리를 유지하여 감속 주행한다
B: 정상속도를 유지하면서 주행한다
C: 경적을 울린다
D: 가속주행한다
标准答案： A

60. 주행 중 횡단보도가 없는 교차로에서 보행자가 길을 건너고 있다면 운전자가 취해야 할 조치는?
A: 감속 또는 정차 후 양보해야 한다
B: 보행자보다 먼저 지나간다
C: 차선변경 후 보행자를 돌아간다.
D: 경적을 울려 길을 비키게끔 한다
标准答案： A

61. 주행 시 비차량이 정차 중인 차량을 지나려고 할 때 운전자가 취해야 할 조치는?
A: 뒤로 따라붙어 경적을 울린다
B: 가속주행 후 비차량을 피해서 주행한다
C: 경적을 울려 길을 양보하게끔 한다
D: 먼저 길을 양보하여 통행하게 한다
标准答案：D

62. 주행 중 비차량이 먼저 가려고 할 경우, 운전자가 취해야 할 조치는?
A: 가까워질 때 갑자기 가속 주행한다
B: 감속해 양보한다.
C: 가속주행
D: 경적을 울려 경고한다
标准答案：B

63. 주행 중인 차선으로 구급차가 역주행할 경우, 운전자가 취해야 할 조치는?
A: 길가로 붙어 감속하거나 정차하여 양보한다
B: 다른 차선을 점용 후 주행한다
C: 가속하여 차선변경을 한 후 양보한다..
D: 주행 중인 차선에서 계속 주행한다
标准答案：A

64. 주행 중 어린이를 발견했을 경우, 운전자가 취해야 할 조치는?
A: 경적을 울려 알림
B: 감속하고 필요할 경우정차 후 양보한다
C: 신속하게 다른 방향으로 운행
D: 가속하여 우회한다
标准答案：B

65. 주행 중 학생들이 줄을 서서 길을 건널 경우 운전자가 취해야 할 조치는?
A: 가속하여 앞질러 나간다
B: 감속서행한다
C: 정차 후 양보한다
D: 경적을 울려 재촉한다
标准答案： C

66. 주행 중 울퉁불퉁한 노면을 지날 때 운전자가 취해야 할 조치는?
A: 기어를 중립에 놓고 지나간다
B: 원래 속도를 유지하면서 지나간다
C: 서행한다
D: 관성을 이용해서 가속 주행한다
标准答案： C

67. 주행 중 같은 방향으로 달리는 자전거를 추월하려고 할 때 운전자가 취해야 할 조치는?
A: 자전거를 먼저 가게 한다
B: 주위를 살핀 후 감속서행하며 충분한 안전거리를 유지한다
C: 경적을 울리며 알린다
D: 경적을 울리면서 가속 추월한다
标准答案： B

68. 야간 주행 중 자전거가 마주 올 경우 운전자가 취해야 할 조치는?
A: 상향전조등과 하향전조등을 번갈아가며 켠다
B: 끊임없이 경적을 울린다
C: 하향전조등을 사용하고, 감속하거나 정차해 양보한다.
D: 하향전조등을 사용한다
标准答案： C

69. 간선도로합류지점에서 합류도로에서 달리는 차량과의 충돌을 방지하기 위해 운전자가 취해야 할 조치는?
A: 우선 감속하여 주의를 살피고 조심스럽게 운행해야 한다
B: 경적을 울리면서 빠르게 지나간다
C: 정상속도를 유지하면서 주행한다
D: 가속해 주행한다.
标准答案：A

70. 우선 통행권이 있는 차량이 교차로에서 먼저 가려는 차량을 만났을 때 운전자가 취해야 할 조치는?
A: 가속주행하며 지나간다
B: 우선통행권이 있는 차량은 길을 비키지 않아도 된다
C: 감속 양보하고, 필요하다면 정차 후 양보해야 한다
D: 먼저 통과한다
标准答案： C

71. 도로에서 임시 정차해야 할 경우 운전자가 취해야 할 조치는?
A: 역방향으로 정차한다
B: 병렬정차한다
C: 역방향 또는 병렬정차해서는 안 된다
D: 나갈 때 편리하기만 하면 아무 곳에 정차해도 상관없다
标准答案： C

72. 비오는 날 임시 정차할 경우어떤 등을 사용해야 하는가?
A: 후진등
B: 전조등
C: 전면 및 후면 안개등
D: 비상깜박이
标准答案： D

73. 눈오는 날 임시 정차할 경우 어떤 등을 사용해야 하는가?
A: 비상깜박이
B: 전면 및 후면 안개등
C: 전조등
D: 후진등
标准答案： A

74. 주행 중어린이 주의 표지판을 보았을 때 운전자가 취해야 할 조치는?
A: 가속주행
B: 우회주행
C: 주의하여 속도를 조절한다
D: 정상속도를 유지하면서 주행
标准答案： C

75. 전방 정류장에 정차한 버스가 있다. 버스가 갑자기출발하거나 차앞으로 지나가는보행자가 있을 경우, 운전자가 취해야 할 조치는?
A: 감속하여 충분한 거리를 두고 언제든지정차할 수 있도록 준비한다
B: 정상속도를 유지하면서 주행한다
C: 급 브레이크를 밟을 준비를 한다
D: 경적을 울려 알리거나 가속 주행하여 통과한다
标准答案： A

76. 우천시 우산을 쓰고 있거나 우비를 입은 보행자가 도로를 횡단할 때 운전자가 취해야 할 조치는?
A: 끊임없이 경적을 울리면서 길을 비키게 한다
B: 가속하여 우회한다
C: 사전에 경적을 울리고 감속 주행한다
D: 정상속도를 유지한다

乐驾中国CHINA DRIVE 版权所有

标准答案：C

77. 교차로에서 먼저 우회전 혹은 좌회전하려는 차량이 있을 경우운전자가 취해야 할 조치는?
A: 정차 후 길을 내준다
B: 정상속도를 유지하면서 주행한다
C: 서둘러 가속주행 후 통과한다
D: 경적을 울린 후 서둘러 통과한다
标准答案：A

78. 차선변경 시 방향지시등을 켜고 주의를 살핀 후 안전거리를 유지하면서 변경을 시도해야 한다.
标准答案：Y

79. 우측으로 차선변경 시 우회전 방향지시등을 켜고 주의를 살핀 후 안전거리를 유지하면서 변경을 시도해야 한다.
标准答案： Y

80. 차선변경 시 방향지시등만 켜면 신속하게 해당차선으로 진입할 수 있다.
标准答案： N

81. 주행 중차량 행렬에 진입할 때 방향지시등을 켜고 백미러를 통해 주의를 잘 살핀 후 안전하게 합류해야 한다.
标准答案： Y

82. 차선변경 시 방향지시등을 켜고 신속하게 옆 차선으로 진입한다.
标准答案：N

83. 주행 중 다른 도로로 합류하려고 할 때 우선 주위에 있는 차량들의 움직임을 잘 살펴야 한다.
标准答案： Y

84. 주행 중횡단보도를 지날 때는 보행자에게양보해야 한다.
标准答案： Y

85. 출발 전 운전자는 반드시 주위 교통상황을 잘 살펴 안전을 확보한 후 주행을 시작해야 한다.
标准答案： Y

86. 도로변에 있던 차량은 출발 후 재빨리 속도를 높여 좌측으로 빠르게 진입해야 한다.
标准答案： N

87. 후진할 때에는 반드시 서행해야 하며 주위에 있는 차량을 잘 살핀 후 수시로 정차할 준비를 해야 한다.
标准答案： Y

88. 추월 중 반대편 차량과 교차 운행할 가능성이 있다면 가속하여 추월해야 한다.
标准答案： N

89. 터널을 지날 때는 추월해서는 안 된다.
标准答案： Y

90. 철로 건널목을 지날 때 추월해서는 안 된다.
标准答案： Y

91. 급우회구간을 지날 때 차량이 적을 경우 추월을 해도된다.
标准答案： N

92. 좁은 길, 좁은 다리를 지날 때는 추월하면 안된다.
标准答案： Y

93. 회전 차량은 도로우측을 따라 주행해야 하며 반대편 차량의 차선을 점용해서는 안된다. 즉 좌회전은 크게 돌고 우회전은 작게 돌아야 한다.
标准答案： Y

94. 주행 중인 차량은 교차로에 진입하기 전 속도를 줄이고 주의를 살펴 안전을 확보해야 한다.
标准答案： Y

95. 차량이 철도건널목을 통과할 때는 저속기어를 넣고 안전하게 지나가야 하며 엔진이 꺼지지 않도록 도중에 기어를 바꿔서는 안된다..
标准答案： Y

96. 주행 중 도로를 건너려는 보행자를 발견하면 속도를 줄여 양보해야 한다.
标准答案： Y

97. 보행자가 교통안전법을 위반한 경우

차량은 길을 양보하지 않아도 된다.
标准答案： N

98. 교차로에서 녹색 신호가 켜졌다면 질주하는 비차량에게는 길을 양보하지 않아도 된다.
标准答案： N

99. U 턴시는 감속하여 주위를 잘 살피고 안전을 확보한 후 전진 혹은 후진을 해야 한다.
标准答案： Y

100. 주행 중에 장애인을 발견했을 경우에는 속도를 줄여 길을 양보해야 한다.
标准答案： Y

101. 안전벨트가 있는 차량은 반드시 탑승자에게 안전벨트착용을 요구해야 한다.
标准答案： Y

102. 주행 중 자전거가 있을 경우 경적을 울린 다음 가속으로 우회해야 한다.
标准答案： N

103. 순환도로에서 통행우선권이 있는 차량은 무리하게 진입하는 차량에게양보하지 않아도 된다.
标准答案： N

104. 교차로에서 좌회전차량은 언제든지 좌회전대기구간에 진입할 수 있다.
标准答案： N

105. 급커브 구간에서는 중앙성을 넘어 반대편 차량과 충돌하지 않도록 감속하여 우회전한다.
标准答案： Y

106. 장시간 정차할 경우에는 주차장에 주차해야 한다.
标准答案： Y

107. 학교와 주택단지를 통과할 때는 서행하고 표지판과 표시선을 잘 살펴야 하며 경적을 울려서는 안된다.
标准答案： Y

108. 고속도로에서 톨게이트를 지날 때 어느 입구로 들어가야 하는가?
A: 녹색신호등이 켜진 쪽
B: 일시정지
C: 적색신호등이 켜진 쪽
D: 차량이 많은 쪽
标准答案：A

109. 주행 중고속도로 추월차선에 진입 후 시속 몇 km 이상의 속도로 달려야 하는가?
A: 30
B: 40
C: 50
D: 60
标准答案：D

110. 고속도로에서 운전자의부주의로 출구를 지나쳤을 경우 운전자가 취해야 할 조치는?
A: 제자리에서 후진
B: 다음 출구로 나간다.
C: 즉시 차를 멈춘다
D: 제자리에서 U 턴한다
标准答案：B

111. 차량 고장으로 인해 고속도로에 임시 정차해야 할 경우 최소 후방 몇 km 이내에 고장 경고표시판을 설치해야 하는가?
A: 200
B: 150
C: 100
D: 50
标准答案：B

112. 다음 중 표지판, 표시선이 모두 있는 고속도로 주행 시 어떤 규정에 따라 차선과 속도를 유지해야 하는가?
A: 도로교통안전법
B: 표지와 표시선
C: 차량설명서
D: 지방법률법규
标准答案：B

113. 고속도로 주행 시 올바르게 설명한 것은?
A: 갓길에 차를 멈춰 사람을 태우거나 내린다
B: 감속차선 혹은 추월차선에서 추월 및

乐驾中国CHINA DRIVE 版权所有

정차가 가능하다
C: 비상상황이 아닐 경우 비상도로에서 주행하거나 정차를 해서는 안된다
D: 비상도로에 차를 멈춘 후 화물을 싣거나 내린다
标准答案：C

114. 4 차선 고속도로에서 시속 110km 이상의 차량이 달릴 수 있는 차선은?
A: 가장 왼쪽 차선
B: 2 차선
C: 3 차선
D: 가장 오른쪽 차선
标准答案：A

115. 입체 교차로에 진입 후 바로 속력을 시속 60km 이상 높일 수 있다.
标准答案： N

116. 고속도로 입체 교차로에서 정차를 할 수 있다.
标准答案： N

117. 고속도로 입체 교차로에서 U 턴을 해서는 안된다.
标准答案：Y

118. 고속도로 입체 교차로에서 후진을 해서는 안된다.
标准答案： Y

119. 고속도로 입체 교차로에서 차의 속력을 시속 60km 이상으로 높였을 경우 차도에 직접 진입할 수 있다.
标准答案： N

120. 고속도로 우측에 있는 갓길에서 주행해야 한다.
标准答案： N

121. 고속도로에서 시속 100km 속력으로 주행할 때 동일한 차로에 있는 앞차와의 안전거리는 100m 이상이다.
标准答案： Y

122. 고속도로에서 주행할 때 수시로 차로를 변경할 수 있다.
标准答案：N

123. 차량이 고속도로를 빠져 나갈 때는 감속주행을 하면서 입체 교차로에 진입해야 한다.
标准答案： Y

124. 고속도로에서 차선을 변경할 때 반드시 방향지시등을 켜고 주위를 살펴 안전을 확보한 후 차선을 변경해야 한다.
标准答案： Y

125. 사고로 인해 고속도로가 막힐 경우 우측 비상도로 혹은 갓길에서 주행할 수 있다.
标准答案： N

126. 고속도로주행 중 짙은 안개로 인해 앞이 잘 보이지 않을 때 즉시 브레이크를 밟고 차를 멈춰야 한다.
标准答案： N

127. 고속도로에서 차가 막힐 경우 순서대로 앞차를 뒤따라가야 하며 비상깜박이을 켜 추돌사고를 방지해야 한다.
标准答案： Y

128. 고속도로 사고 발생으로 교통 통제를 할 경우 고속도로에서 나가지 않고 도로 가장자리에 정차하며 통제가 끝난 후 계속 주행할 수 있다.
标准答案： N

129. 소형차가 평탄한 고속도로에서 주행할 때 갑자기 심하게 흔들리면 타이어가 펑크나지 않도록 신속하게 속도를 줄여야 한다.
标准答案： Y

130. 고속도로 주행 시 피로할 경우 즉시 정차해 휴식한다.
标准答案：N

131. 고속도로 주행 시 직감에 의해서만 속도를 확인할 수 있다.
标准答案： N

132. 산간지역 도로를 주행할 때는 어떻게 해야 하는가?
A:안전 거리를 적당하게 줄인다.
B:최대한 빨리 추월할 기회를 노린다.
C:앞 차 뒤를 바짝 따라간다.
D:안전 거리를 적당하게 늘린다.

标准答案： D

133. 산간지역 도로에서 추월을 할 경우 어떻게 해야 하는가?
A:비교적 완만한 내리막 길을 선택한다.
B:기회가 되면 되는대로 추월한다.
C:완만하고 넓은 언덕길 구간을 선택한다.
D:비교적 긴 내리막 길을 선택한다.
标准答案： C

134. 산간지역 도로에서 반대편 차량을 만날 경우 어떻게 해야 하는가?
A:감속하지 않는다
B:도로 가운데로 간다
C:가속한다
D:감속하거나 정차하고 양보한다
标准答案： D

135. 내리막 길에서 브레이크 외에 속도를 제어할 수 있는 효과적인 보조 방법은?
A:엔진을 끄고 간다
B:클러치를 밟고 주행한다.
C:기어를 넣지 않고 주행한다.
D:엔진 브레이크를 이용한다.
标准答案： D

136. 내리막 길에서 브레이크를 계속 사용하면 어떻게 되는가?
A:엔진 수명이 줄 수 있다.
B:운전자의 육체적인 피로를 높인다.
C:차량 전복을 야기하기 쉽다.
D:제동장치의 온도 상승으로 제동 효과가 급격히 감소된다.
标准答案： D

137. 비교적 좁은 산길을 주행할 경우 산을 끼고 달리는 쪽이 양보를 하지 않을 경우 어떻게 해야 하는가?
A:왼쪽 도로로 신중하게 운전한다.
B:미리 감속하거나 정차해 양보한다.
C:정상 속도를 유지한다.
D:경적을 울려 양보하도록 독촉한다.
标准答案： B

138. 오르막길에서는 먼저 노면 상황, 폭, 길이를 관찰하고 즉시 저속 기어로 바꿔 차가 충분한 동력을 유지할 수 있도록 해야 한다.
标准答案： Y

139. 내리막길에서는 속도를 적절히 제어하고,엔진을 충분히 이용해 제동을 해야 한다.
标准答案： Y

140. 내리막길에서는 엔진의 제동 역할을 충분히 이용하기 위해 기어를 낮춰야 한다.
标准答案： Y

141. 산간 지역 커브 길에서 커브를 할 때는 감속하고, 경적을 울리고, 우측으로 붙어 주행해야 한다.
标准答案： Y

142. 산간도로 내리막 길에서는 추월해서는 안 된다.
标准答案： Y

143. 산간도로 내리막 길에서는 중립기어로 주행한다.
标准答案： N

144. 산간지역 도로 주행 시 특히 '연속 커브길'표시에 주의를 기울이며,적절한 감속과 함께 경적을 울리면서 양보 운전을 한다.
标准答案： Y

145. 산간지역 도로 오르막 길 주행 시 신속하고 정확하게 기어를 낮춰 엔진 동력이 떨어지지 않도록 해야 한다.
标准答案：Y

146. 산사태가 항상 발생할 수 있는 산간지역 위험 구간에서는 신중하게 운전하며 차를 세우지 않는다.
标准答案： Y

147. 산사태가 항상 발생하는 산간지역 구간에서는 차를 세우지 않는다.
标准答案： Y

148. 2 방향 터널에 진입하기 전 어떤 등을 켜야 하는가?
A:차폭등 혹은 하향 전조등
B:상향 전조등
C:안개등
D:비상깜박이

乐驾中国CHINA DRIVE 版权所有

标准答案： A

149. 입체교차로 다리는 일반적으로 일방 통행이기 때문에 차량은 감속 운행할 필요가 없다.
标准答案： N

150. 야간에 조명이 밝은 구간을 지나갈 경우 어떤 등을 사용해야 하는가?
A:안개등
B:하향 전조등
C:비상깜박이
D:상향 전조등
标准答案： B

151. 야간 주행 시 전방에 커브길이 나오면 라이트 방향에 어떤 변화가 생길 수 있는가?
A:거리 불변
B:길을 비추지 않음
C:측면을 비춤
D:낮은 곳을 비춤
标准答案： C

152. 야간 운전시 운전자의 시야는 제약을 받아 조명이 비치지 않는 곳의 교통상황을 관찰하기 어렵기 때문에 반드시 감속 운행해야 한다.
标准答案： Y

153. 야간에는 운전자의 사물 관찰 능력이 주간 보다 떨어지고 가시거리가 줄어든다.
标准答案： Y

154. 야간에는 출발하기 전 반드시 하향 전조등을 먼저 켜야 한다.
标准答案： Y

155. 야간 교차 운행 시 반대편 차량이 상향 전조등을 끄지 않았다면 등을 바꾸어 상대 차량에게 알리고, 감속해 우측으로 주행하거나 정차할 수 있다.
标准答案：Y

156. 야간에 가로등이 없거나 희미한 곳을 지날 때는 하향 전조등을 상향으로 바꿔야 하나, 같은 방향으로 달리고 있는 뒤차는 상향 전조등을 켤 필요가 없다.
标准答案： Y

157. 야간 주행 시 반대 차선 차량이 상향 전조등을 끄지 않았을 시,두 차량의 라이트가 겹치는 부분에 보행자가 지나갈 경우 사고가 생기는 것을 방지하기 위해 반드시 감속해야 한다.
标准答案： Y

158. 야간에 교통신호등 통제가 없는 교차로를 통과할 때 상향,하향 전조등을 바꿔서는 안 된다.
标准答案：N

159. 야간 주행 시 최대한 추월하지 말고, 추월해야 할 경우 상향 전조등을 켜 앞 차에게 알려야 한다.
标准答案： Y

160. 야간에 앞 차에 바짝 붙어 주행할 때 뒤차는 상향 전조등을 사용할 수 있다.
标准答案： N

161. 폭우가 내리는 데 와이퍼를 사용할 수 없을 경우 어떻게 해야 하는가?
A:감속 운행한다.
B:주의력을 집중 시켜 신중하게 운전한다.
C:즉시 감속하고, 차를 길 가에 세운다.
D:정상 속도로 주행한다.
标准答案： C

162. 산간지역 눈,빙판길에서 앞차가 오르막을 오르고 있을 때 뒤차는 어떻게 해야 하는가?
A:적당한 위치를 찾아 정차하고, 앞차가 통과하기를 기다렸다 간다.
B:빠르게 앞차를 추월한다.
C:뒤에 바짝 붙어 간다.
D:저속으로 올라간다.
标准答案： A

163. 안개 낀 날에는 어떤 등을 켜야 하는가?
A:하향 전조등
B:안개등
C:후진등
D:상향 전조등
标准答案： B

164. 짙은 안개 혹은 눈이 많이 내려 가시거리가 줄어 운전이 어려울 때 어떻게 해야 하는가?
A:전조등을 켜고 계속 주행한다.
B:차폭등,안개등을 켜고 우측으로 붙어 주행한다.
C:비상깜박이와 안개등을 켜고, 안전한 지대를 찾아 차를 세운다.
D:비상깜박이를 켜고 계속 주행한다.
标准答案： C

165. 차량이 물을 건넌 후 저속 주행을 유지하려면 브레이크를 어떻게 밟아 제동 효과를 회복해야 하는가?
A:가볍게 계속 밟는다.
B:밟고 떼기를 반복하며 세게 밟는다.
C:밟고 떼기를 반복하며 가볍게 밟는다.
D:계속 세게 밟는다.
标准答案： C

166. 비,바람,눈,안개 등으로 앞차가 저속으로 달릴 경우 반드시 전조등을 켜고 경적을 울리며 신속하게 앞질러가야 한다.
标准答案： N

167. 비오는 날 노면이 미끄러우면 차량 제동 거리가 늘어나기 때문에 운행 중 급 브레이크를 사용해 감속한다.
标准答案： N

168. 안개가 짙은 날은 가시거리가 좁은데 상향전조등을 켜면 가시거리를 늘릴 수 있다.
标准答案： N

169. 비가 계속 내리면 산간지역 도로 경사면이 붕괴될 수 있기 때문에 반드시 도로 중간의 단단한 노면으로 주행하고, 길 가 주행을 피해야 한다.
标准答案： Y

170. 안개 낀 날 경적을 많이 사용하면 상대방의 주의를 일깨울 수 있다. 반대편 차량의 경적을 소리를 들고, 경적으로 답할 수 있다.
标准答案： Y

171. 눈,빙판 길을 운전할 경우 반드시 속도를 줄이고, 안전 거리를 늘려야 한다.
标准答案： Y

172. 눈이 올 때 바퀴자국이 있는 구간을 따라 주행해야 한다.
标准答案： Y

173. 눈,빙판길에서 급제동을 하면 미끄러질 수 있기 때문에 저속 주행하며, 엔진 브레이크를 이용해 감속할 수 있다.
标准答案： Y

174. 진흙탕 길을 주행할 경우 정차한 후 주위를 살피고, 평평하고 단단한 길을 선택해 천천히 통과해야 한다.
标准答案： Y

175. 비가 많이 오는 날 미끄러운 노면으로 인한 위험을 방지하기 위해 속도를 제어하면서 주행해야 한다.
标准答案： Y

176. 앞 타이어가 터져 방향을 잃었고, 운전자가 방향을 통제해야하는 상황에서 어떻게 해야 하는가? 감속 서행 주행해야 하는가?
A:주차브레이크를 사용한다.
B:급제동한다.
C:신속하게 브레이크를 밟는다.
D:브레이크를 살살 밟는다.
标准答案： D

177. 타이어 공기압이 너무 낮아 고속 주행으로 인해 타이어 홈에 변형이 생기고 온도가 높아지면 어떻게 되는가?
A:타이어가 터진다.
B:주행 저항력이 증가한다.
C:공기압이 더 낮아진다.
D:공기압이 불안정해진다.
标准答案： A

178. 타이어 터짐 방지 방법 중 잘못된 것은?
A:타이어 공기압을 낮춘다.
B:정기적으로 타이어를 검사한다.
C:즉시 타이어 홈에 끼어있는 이물질을 처리한다.
D:파열되고 심각하게 손상된 타이어를 교체한다.
标准答案： A

179. 타이어 공기가 빠진 것을 확인한

乐驾中国CHINA DRIVE 版权所有

운전자가 주 도로에서 벗어날 때, 차량 전복 혹은 뒤차가 제 때 제동하지 못해 생기는 추돌 사고를 피하기 위해 급 브레이크를 사용하지 말아야 한다.
标准答案： Y

180. 뒷바퀴펑크로 차 후위가 흔들리면, 운전자는 두 손으로 운전대를 단단히 잡고 차가 곧게 주행할 수 있도록 유지하며 감속해 정차한다.
标准答案： Y

181. 주행 중 타이어가 터진 것을 알게 되면 차가 회전하지 않도록 하며 가볍게 브레이크를 밟아 감속 서행하면서 천천히 길 가에 세운다.
标准答案： Y

182. 계기판에 등이 계속 켜져 있으면 에어백이 사용 중임을 뜻한다.
标准答案： N

183. 주행 중 타이어가 터지면 운전자는 당황하여 급 브레이크를 밟지 말고, 최대한 기어와 엔진 브레이크를 이용해 감속해야 한다.
标准答案： Y

184. 앞 타이어가 터지면, 터진 쪽으로 차가 기울고, 운전자가 운전대를 통제하는데 직접적인 영향을 주기 때문에 위험이 비교적 크다.
标准答案： Y

185. 타이어가 터진 후 운전자는 차가 무리하게 흔들려 더 큰 위험한 상황이 발생하는 것을 피하기 위해 달리는 속도를 통제하기 전에는 브레이크로 차를 세우지 말아야 한다.
标准答案： Y

186. 앞 타이어가 터져 방향이 틀어질 경우 운전자는 양손으로 운전대를 단단히 잡고, 최대한 직진으로 주행하도록 해야 한다.
标准答案： Y

187. 타이어가 터진 것을 인식한 경우 운전자는 방향 통제가 가능한 상황에서 급제동을 해 신속하게 차를 세워야 한다.
标准答案： N

4、자동차 전체구조와 주요 안전장치 상식, 일상검사와 수리보양 기본지식

机动车总体构造和主要安全装置常识、日常检查和维护基本知识（109 题）

1. 이 계기판은 무엇인가?

A:주행 속도 게이지
B:엔진 회전수 게이지
C:연비 게이지
D:구간거리표시계
标准答案： B

2. 이 계기판은 무엇인가?

A:연비 게이지
B:속도 게이지
C:엔진 회전수 게이지
D:최고 시속표
标准答案： B

3. 이 계기판은 무엇인가?

A:전류 게이지
B:압력 게이지
C:냉각수 온도 게이지
D:연료 게이지
标准答案： C

4. 이 계기판은 무엇인가?

A:전류 게이지
B:냉각수 온도 게이지
C:압력 게이지
D:연료 게이지
标准答案： D

5. 계기판은 현재 속도가 시속 20km 임을 나타내고 있다.

标准答案： N

6. 현재 RPM 은 6000 이다.

标准答案： N

7. 현재 냉각수 온도는 90 도이다.

标准答案： Y

8. 연료 탱크 내 연료가 경고 수준보다 낮다.

标准答案： Y

9. 자동차 계기판에 이런 등이 켜져 있을 경우 무슨 의미인가?

A:하향 전조등 켜짐
B:전면 안개등 켜짐
C:후면 안개등 켜짐
D:상향 전조등 켜짐
标准答案： B

10. 자동차 계기판에 이런 등이 켜져 있을 경우 무슨 의미인가?

A:하향 전조등 켜짐
B:후면 안개등 켜짐
C:전면 안개등 켜짐
D:상향 전조등 켜짐
标准答案： B

乐驾中国CHINA DRIVE 版权所有

11. 자동차 계기판에 이런 등이 켜져 있을 경우 무슨 의미인가?

A:비상깜박이 켜짐
B:전후방 차폭등 켜짐
C:전후방 안개등 켜짐
D:전조등 켜짐
标准答案： B

12. 전면안개등을 켜면 등이 켜진다.

标准答案： N

13. 후면안개등을 켜면 등이 켜진다.

标准答案： N

14. 전후방 차폭등을 켜면 등이 켜진다.

标准答案： Y

15. 시동을 건 후 계기판에 이 등이 켜졌다. 무슨 의미인가?

A:엔진오일 유압 높음
B:엔진 크랭크 케이스 가스 유출
C:엔진오일 유압관 막힘
D:엔진오일 유압 낮음
标准答案： D

16. 계기판에 등이 켜지면 엔진 오일이 부족하다는 뜻이다.

标准答案： Y

17. 계기판에 등이 켜지면 엔진 오일 유압이 지나치게 높다는 뜻이다.

标准答案： N

18. 계기판에 이 등이 켜졌다. 무슨 의미인가?

A:브레이크 시스템 이상
B:브레이크 효력 상실
C:주차브레이크 해제
D:브레이크 페달이 제 위치로 돌아오지 않음
标准答案： A

19. 계기판에 이 등이 켜졌다. 무슨 의미인가?

A:주차브레이크 해제
B:ABS 장치 고장
C:에어백 고장
D:브레이크 고장
标准答案： B

20. 계기판에 이 등이 켜졌다. 무슨 의미인가?

A:브레이크 고장
B:주차브레이크 작동 중
C:주차브레이크 해제

D:ABS 장치 고장
标准答案： B

21. 계기판에 등이 켜지면 주차브레이크 손잡이가 다 풀리지 않았음을 의미한다.

标准答案： N

22. 계기판의 등이 깜박이면 좌측 문이 열려있음을 알리는 것이다.

标准答案： N

23. 계기판에 등이 켜져도 정상 주행에 무리가 없다.

标准答案： N

24. 계기판에 등이 켜지면 ABS 시스템이 열려있는 상태를 의미한다.

标准答案： N

25. 계기판에 등이 켜지면 주차브레이크가 작동하고 있음을 의미한다.

标准答案： Y

26. 계기판에 등이 켜졌다. 무슨 의미인가?

A:연료탱크의 연료가 거의 바닥남
B:주유 시스템 이상
C:엔진 고장
D:연료펌프 이상 혹은 고장
标准答案： A

27. 계기판에 등이 켜지면 엔진 오일을 보충해야 한다.

标准答案： N

28. 주행 중 계기판에 등이 켜졌다. 무슨 의미인가?

A:엔진온도 저하
B:엔진 윤활시스템 고장
C:엔진 냉각시스템 고장
D:엔진 과열
标准答案： D

29. 계기판에 등이 켜지면 엔진 냉각수 부족을 의미한다.

标准答案： Y

30. 계기판에 등이 켜지면 엔진 오일을 보충해야 한다.

标准答案： N

31. 계기판에 등이 켜졌다. 무슨 의미인가?

乐驾中国CHINA DRIVE 版权所有

A:하향 전조등 켜짐
B:전면안개등 켜짐
C:상향 전조등 켜짐
D:후면안개등 켜짐
标准答案： C

32. 계기판에 등이 켜졌다. 무슨 의미인가?

A:상향 전조등 켜짐
B:전면안개등 켜짐
C:후면안개등 켜짐
D: 하향 전조등 켜짐
标准答案： D

33. 상향 전조등을 켜면 계기판에 등이 켜진다.

标准答案： N

34. 하향 전조등을 켜면 계기판에 등이 켜진다.

标准答案： N

35. 계기판에 등이 켜졌다. 무슨 의미인가?

A:안전벨트 고장
B:안전벨트 착용이 지나치게 느슨함
C:안전벨트 착용
D:안전벨트 미착용
标准答案： D

36. 계기판에 등이 켜지면 운전석 의자가 조정되지 않았음을 뜻한다.

标准答案： N

37. 계기판의 등은 운전자의 안전벨트 미착용을 의미한다.

标准答案： Y

38. 비상깜박이는 다음 어떤 경우에 사용할 수 있는가?
A:도로 정체시
B:뒤차를 이끌고 주행해야 할 때
C:도로에서 차를 따라 주행할 때
D:차량 고장으로 세워야 할 경우
标准答案： D

39. 계기판의 등의 의미는?

A:우회전 방향지시등
B:비상깜박이
C:좌회전 방향지시등
D:전후방 차폭등
标准答案： B

40. 자동차 고장 시 등이 깜박거린다.

标准答案： N

41. 비상깜박이를 켜면 등이 깜박거린다.

标准答案： Y

42. 계기판에 등이 켜졌다. 무슨 의미인가?



A: 좌회전 방향지시등 깜박임
B: 전후방 위치등 켜짐
C: 우회전 방향지시등 깜박임
D: 전후방 차폭등 켜짐
标准答案： C

43. 계기판에 등이 켜졌다. 무슨 의미인가?

A: 좌회전 방향지시등 깜박임
B: 전후방 차폭등 켜짐
C: 우회전 방향지시등 깜박임
D: 전후방 위치등 켜짐
标准答案： A

44. 좌회전 방향지시등을 켜면 등이 켜진다.

标准答案： N

45. 우회전 방향지시등을 켜면 등이 켜진다.



标准答案： N

46. 계기판에 등이 켜졌다. 무슨 의미인가?

A: 전류 충전 지나침
B: 축전지 손상
C: 전류계 고장
D: 배터리 충전 경고
标准答案： D

47. 계기판에 등이 켜졌다. 무슨 의미인가?

A:차 문 열림 경고
B:트렁크 도어 오픈 경고
C:엔진 컴파트먼드 열림
D:주유덮개 열림
标准答案： A

48. 계기판에 등은 무엇을 의미하는가?

A:주유덮개 열림
B:트렁크 도어 열림
C:엔진 컴파트먼드 열림
D:한쪽 차 문 열림
标准答案： B

49. 계기판에 등은 무엇을 의미하는가?

A:주유덮개 열림
B:한쪽 차 문 열림
C:엔진 컴파트먼드 열림
D:트렁크 도어 열림
标准答案：C

50. 계기판에 등이 계속 켜있다.무슨 의미인가?

A:에어백 사용 중
B:안전벨트 미착용
C:ABS 고장
D:에어백 고장
标准答案： D

乐驾中国CHINA DRIVE 版权所有

51. 계기판에서 의 의미는?

A:하향 전조등 스위치
B:상향 전조등 스위치
C:실내등 스위치
D:후면안개등 스위치
标准答案：C

52. 계기판에 등이 켜졌다. 무슨 의미인가?

A:정면 바람
B:내부 공기 순환
C:외부 공기 순환
D:창문 서리 제거
标准答案： C

53. 계기판에 등이 켜졌다. 무슨 의미인가?

A: 외부 공기 순환
B: 창문 서리 제거
C: 정면 바람
D: 내부 공기 순환
标准答案： D

54. 계기판에서 의 의미는?

A: 냉난방 풍량 조절기
B:눈길 출발
C:공기순환
D:에어컨
标准答案： A

55. 계기판에 등이 켜졌다. 무슨 의미인가?

A:공기 외부 순환
B:바닥 및 정면으로 바람이 나옴
C:측면 및 바닥으로 바람이 나옴
D:공기 내부 순환
标准答案： B

56. 계기판에 등이 켜졌다. 무슨 의미인가?

A:측면 바람
B:공기 내부 순환
C:공기 외부 순환
D:정면에서 바람이 나옴
标准答案： D

57. 표시가 된 스위치는 어떤 장치를 제어하는가?

A:차 후면 유리 서리 제거
B:앞유리 서리 제거
C:차 후면 유리 와이퍼
D:차 정면 유리 와이퍼
标准答案： D

58. 표시가 된 스위치는 어떤 장치를 제어하는가?

A:후면 유리 와이퍼 및 워셔액
B:후면 유리 서리 제거 및 제습
C:앞 유리 서리 제거 및 제습
D:앞 유리 와이퍼 및 워셔액
标准答案： D

59. 표시가 된 스위치는 어떤 장치를 제어하는가?

A:후면 유리 와이퍼 및 워셔액
B:앞 유리 서리 제거 및 제습
C:후면 유리 서리 제거 및 제습
D:앞 유리 와이퍼 및 워셔액
标准答案： A

60. 표시가 된 스위치는 어떤 장치를 제어하는가?

A:어린이 안전 잠금 장치
B:차량 양쪽 유리
C:오토 도어
D:도어락
标准答案： D

61. 표시가 된 스위치는 어떤 장치를 제어하는가?

A:오토 도어
B:차량 양쪽 유리
C:어린이 안전 잠금 장치
D:도어락
标准答案：C

62. 계기판에 등이 켜졌다. 무슨 의미인가?

A:브레이크 오일 부족
B:워셔액 부족
C:냉각시스템 고장
D:냉각수 부족
标准答案：D

63. 계기판의 등은 엔진이 배터리를 충전하는 중임을 의미한다.

标准答案： N

64. 계기판의 등은 문 열림을 경고하는 것이다.

标准答案： Y

65. 계기판의 등이 깜박이면 좌측 문이 열려있음을 알리는 것이다.

标准答案： N

66. 계기판의 등이 깜박이면 우측 문이 열려있음을 알린다.

标准答案： N

67. 계기판에 등이 켜지면 엔진 오일 유압이 지나치게 높다는 뜻이다.

标准答案： N

68. 표시는 엔진 컴파트먼드 열림을 의미한다.

标准答案： N

69. 계기판의 등은 트렁크 도어 열림을

乐驾中国CHINA DRIVE 版权所有

뜻한다.

标准答案： N

70. 계기판의 표시는 앞 유리와 바닥으로 온난방풍이 부는 것을 의미한다.

标准答案： Y

71. 계기판에 이 켜져 있으면 엔진 제어 시스템 고장을 의미한다.

标准答案： Y

72. 이렇게 운전대를 잡는 것이 옳다.

标准答案： N

73. 이것은 무슨 페달인가?

A:브레이크 페달
B:가속 페달
C:클러치 페달
D:주차 브레이크 페달
标准答案： C

74. 이것은 무슨 페달인가?

A:가속 페달
B:브레이크 페달
C:클러치 페달
D:주차 브레이크 페달
标准答案：B

75. 이것은 무슨 페달인가?

A:가속 페달
B:브레이크 페달
C:클러치 페달
D:주차 브레이크 페달
标准答案： A

76. 이 장치는 무엇인가?

A:주차 브레이크
B:클러치
C:기어변속 레버
D:스로틀 벨브
标准答案： C

77. 이 것은 무엇인가?

A:스토틀 벨브
B:클러치
C:주차브레이크 손잡이
D:기어변속 레버
标准答案： C

78. 이것은 무엇인가?

A:등 스위치
B:에어컨 스위치
C:엔진 스위치
D:와이퍼 스위치
标准答案： C

79. 엔진 스위치를 ACC 위치로 돌리면 엔진이 켜진다.

标准答案： N

80. 엔진 스위치가 ON 에 있으면 차량용 전기를 사용할 수 없다.

标准答案： N

81. 엔진 스위치 LOCK 위치에서 열쇠를 빼면 운전대가 잠긴다.

标准答案： Y

82. 엔진 스위치 START 에서 시동이 걸린다.

标准答案： Y

83. 이것은 무엇인가?

A:후진등 스위치
B:와이퍼 스위치
C:라이트, 신호 지시등 스위치
D:비상깜박이 스위치
标准答案： C

乐驾中国CHINA DRIVE 版权所有

84. 이것은 어떤 라이트의 스위치인가?

A:후진들
B:좌회전, 우회전 방향지시등
C:차폭등
D:경고등
标准答案： B

85. 어떤 등을 사용하기 위해 여기로 돌리는가?

A:좌회전 혹은 우회전 방향지시등
B:전후면 안개등
C:상향 전조등
D:하향 전조등
标准答案： B

86. 방향지시등 레버를 위로 올리면 좌회전 등이 깜박인다.

标准答案： N

87. 방향지시등 레버를 아래로 내리면 우회전 등이 깜박인다.

标准答案： N

88. 라이트 스위치를 이 위치까지 돌리면 차 전체 라이트가 켜진다.

标准答案： N

89. 이 위치에서는 전방 안개등이 켜진다.

标准答案： Y

90. 이 위치에서는 후면안개등이 켜진다.

标准答案： Y

91. 이것은 무엇을 제어하는 장치인가?

A:제습 스위치
B:방향 지시등 스위치
C:전조등 스위치
D:와이퍼 스위치
标准答案： D

92. 이것은 무엇을 제어하는 장치인가?

A:제습 스위치
B:방향 지시등 스위치
C:전조등 스위치
D:와이퍼 스위치
标准答案： A

93. 이 스위치가 제어하는 것은?

A:습기 제거
B:와이퍼
C:비상깜박이
D:조명, 신호 장치
标准答案： B

94. 이 스위치를 누르면 후면 유리의 서리 제거가 시작된다.

标准答案： N

95. 이 스위치를 상하로 움직이면 와이퍼가 움직인다.

标准答案：Y

96. 뒤에서 차가 박았을 경우, 해드레스트는 운전자의 어느 부위를 효과적으로 보호할 수 있는가?
A:허리
B:흉부
C:목
D:머리
标准答案： C

97. 해드레스트는 교통사고가 났을 때 운전자의 머리 부상을 보호하기 위한 것이다.
标准答案： N

98. 차량 추돌 사고 시 안전 벨트는 어떤 역할을 하는가?
A:운전자와 탑승자의 흉부를 보호한다.
B:운전자와 탑승자의 허리를 보호한다.
C:운전자와 탑승자의 목을 보호한다.
D:운전자와 탑승자의 부상을 줄인다.
标准答案： D

99. 정면 충돌 사고가 발생했을 때 에어백과 안전 벨트는 안전 장치의 역할을 이중으로 충분히 발휘할 수 있다.
标准答案： Y

100. 충돌 사고가 발생했을 경우 안전 벨트는 운전자와 탑승자의 부상을 줄일 수 있다.
标准答案： Y

101. 급제동을 할 경우 ABS 시스템은 어떤 역할을 하는가?

乐驾中国CHINA DRIVE 版权所有

A:제동 관성 경감
B:바퀴 잠김 현상 방지
C:자동으로 방향을 제어한다.
D:동력의 출력을 끊는다.
标准答案： B

102. ABS 는 어떤 상황에서 제동 기능을 최대한 발휘할 수 있는가?
A:브레이크 페달을 놓을 때
B:간헐적 제동 시
C:지속적으로 제동할 경우
D:급제동시
标准答案： D

103. 급제동할 경우 ABS 시스템은 제동력을 높이면서 앞바퀴 잠김현상을 방지한다.
标准答案：Y

104. ABS 장착 차량은 눈,빙판길에서 제동 거리를 최대한 줄일 수 있다.
标准答案： N

105. ABS 장착 차량은 급제동과 함께 회전하면 옆으로 미끄러질 수 있다.
标准答案： Y

106. ABS 장착 차량은 급제동시 브레이크 페달을 힘껏 밟을 수 있다.
标准答案： Y

107. ABS 장착 차량은 제동시 제동 거리가 급격하게 줄어들기 때문에 안전 거리를 유지할 필요가 없다.
标准答案：N

108. 에어백은 어떤 장치인가?
A:ABS 장치
B:운전자 머리와 목 보호 장치
C:전자 제동력 분배 시스템
D:운전자 및 탑승자 보호 보조 시스템
标准答案： D

109. 정면 에어백은 어떤 장치와 함께 해야 보호 역할을 충분히 발휘할 수 있는가?

A:안전벨트
B:ABS 시스템
C:해드레스트
D:안전유리
标准答案： A